الجمهورية الجزائرية الديمقراطية الشعبية

وزارة التربية الوطنية — الديوان الوطني للامتحانات والمسابقات

امتحان بكالوريا التعليم الثانوي ﴿ دورة جوان 1997 ﴾

الشعب :آداب وعلوم إنسانية + آداب وعلوم إسلامية + آداب ولغات أجنبية + تسيير و إقتصاد . — المدة : 3 ساعات

اختبار في مادة التاريخ والجغرافيا

أجب عن سؤال في التاريخ و سؤال في الجغرافيا :

التاريخ

السؤال الأول: عرف الوطن العربي أحداثًا بارزة في التواريخ الآتية : 1954 ـ 1956 ـ 1958 .

المطلوب :

1) عرّف طبيعة هذه الأحداث التي وقعت في هذه التواريخ .
2) بيّن انعكاساتها على المستوى المحلي وعلى مستوى الوطن العربي .
3) عيّن على الخريطة المرفقة (شكل 1) الدول التي وقعت فيها تلك الأحداث .

السؤال الثاني : في أفريل 1974 انعقدت الجمعية العامة لهيئة الأمم المتحدة في دورة استثنائية بطلب من مؤتمر الجزائر لحركة عدم الانحياز سنة 1973 .

المطلوب : بيّن ما يلي :

1) دوافع عقد هذه الدورة الاستثنائية للجمعية العامة للأمم المتحدة .
2) القضايا المطروحة للمناقشة في هذه الدورة .
3) دور الجزائر في طرح اهتمامات حركة عدم الانحياز وكيف ؟

السؤال الثالث : قال الرئيس الغاني " نكروما " عن تطور القضية الجزائرية :

" إنّ فرنسا لا تستطيع أن تنتحر عسكريًا، والطريق الوحيد للخروج من المأزق هو طريق التّفاوض، وعلى الأمم المتحدة أن تتحمل مسؤوليتها، وتتدخل في حرب الجزائر، كما يجب على العالم أجمع أن يعرف أنّ الجزائر بلد إفريقي وسيبقى إفريقيًا " .

المطلوب : حلّل النص مبينًا ما يلي :

أ ـ الأفكار الأساسية في النص .
ب ـ الدوافع التي أجبرت فرنسا على الدخول في مفاوضات مع جبهة التحرير الوطني .
جـ ـ مراحل هذه المفاوضات ونتائجها .

الجغرافيا

السؤال الأول : إليك خريطة العالم السياسية " صمّاء " ـ شكل (2) ـ

المطلوب :

1) حدّد على الخريطة عالمي الشمال والجنوب جغرافيا حسب المفتاح أدناه .
2) على ضوء الخريطة بيّن مايلي :
   أ ـ مفهوم الشمال والجنوب جغرافيا واقتصاديا .
   ب ـ الأسباب الحقيقية لتطور عالم الشمال وتخلف عالم الجنوب .

السؤال الثاني : بلغ سكان الهند سنة ـ 1991 ـ : 844 مليون نسمة ومع ذلك فإن قيمة وارداتها من المواد الغذائية لم تتجاوز : 06,2 % من مجموع قيمة الواردات، بينما بلغت قيمة صادراتها من المواد الزراعية في نفس السنة: 20,2 % من مجموع قيمة الصادرات .

المطلوب : على ضوء هذه المعطيات بيّن مايلي :

1) مستوى الأمن الغذائي للهند ـ عوامل ومظاهر ـ .
2) دور الزراعة في الاقتصاد الهندي .
3) عيّن على الخريطة المرفقة ـ شكل (3) ـ مناطق زراعة : الأرز ـ القمح ـ الذرة ـ القطن الشّاي .

السؤال الثالث : إليك جدول يمثّل توزيع الفئة النشيطة على القطاعات الاقتصادية ومساهمة كل قطاع في الدخل الوطني الياباني سنة 1995 .

القطاعات	نسبة التشغيل	نسبة الدخل
الزراعة	% 07,2	% 03,5
الصناعة	% 34,1	% 40,1
الخدمات	% 58,7	% 56,4

المصدر : الأطلس الاقتصادي العالمي 1995 .

المطلوب :

1 ـ مثّل أرقام الجدول في دائرتين نسبيتين (قطر كل منهما 6 سم)
2 ـ علّق على الرسم مبينا ما يلي :
   أ ـ دور كل قطاع في الاقتصاد الياباني.
   ب ـ خصائص الاقتصاد الياباني من خلال دراستك للموضوع .
   جـ ـ المشاكل والآفاق .

- شكل - 1 -



الدول التي وقعت فيها الأحداث

- شكل - 2 -



عالم الشمال

عالم الجنوب

الحدود بين العالمين

- شكل - 3 -



مناطق زراعة الأرز

مناطق زراعة القمح

مناطق زراعة الذرة

سلم التنقيط

المادة :- تاريخ الشعبة :- تسيير واقتصاد الدورة :- جوان 2000

آداب وعلوم إنسانية - آداب وعلوم إسلامية - لغات أجنبية

محاور الإجابة	عناصر الإجابة - 185 -	العلامة
★ المقدمة ★ الموضوع ● تعريف الأحداث: في تواريخ: 1954 - 1956 - 1958 .	• عرف الوطن العربي العديد من الأحداث المصيرية ، اشتركت جميعا في مقاومة التيار الاستعماري والامبريالي الجارف ، أهمها :- • حدث 1954 :- يتحد الإعلان عن انطلاق الثورة الجزائرية المسلحة ضد الاستعمار الفرنسي، بعد ما تبين عقم النضال السياسي أمام وعود الاستعمار الكاذبة . • حدث 1956 :- تأميم قناة سويس في 26 جويلية 1956 ، وفشل الأمبريالية للعدوان الثلاثي على مصر في أكتوبر من السنة نفسها ، وانسحاب فرنسا وبريطانيا من مصر . • حدث 1958 :- ثورة 14 جويلية 1958 بزعامة عبد السلام عارف وعبد الكريم قاسم بالعراق ، للإطاحة بالنظام الملكي بقيادة نيصل ورئيس وزرائه نوري السعيد .	1 7
● انعكاسات تلك الأحداث	• الثورة الجزائرية :- على المستوى المحلي :- دعم الشعب للثورة والتفافه حولها . - إفشال المخططات الاستعمارية ، ودحر قواته . - على الصعيد العربي : دعم النضال التحرري في المغرب العربي وتوحيد العمل . - تعزيز العمل الدبلوماسي العربي في المحافل الدولية ، والعمل على تدويل القضية الجزائرية . • تأميم قناة سويس والعدوان الثلاثي :- محليا :- استعادت مصر سيادتها الكاملة ورحيل مخلفات الجيش المصري . - على الصعيد العربي :- رفض مشروع أيزنهاور . - تقديم الدعم المادي والمعنوي للحركات التحررية العربية . - تجسيد مشروع الوحدة بين مصر وسوريا 1958 . - الاشراف على عقد أول قمة عربية 1964 . • الثورة العراقية :- محليا : استبدال النظام الملكي بالنظام الجمهوري ، عربيا : انسحاب العراق من حلف بغداد ، وتوثيق الروابط العربية ودعم التحرر العربي ، تحرير الاقتصاد العراقي من النفوذ البريطاني	7
★ الخاتمة ★ الحريطة	• يبقى هدف الثورات العربية واحد وهو التحرر السياسي والاقتصادي ، وبيقى الاسلام والوحدة وسيلتها المثلى • تعيين مواقع الدول التي وقعت فيها الأحداث (الحريطة مرفقة بالسلم)	1 4
★ المقدمة ★ الموضوع ● دوافع عقد الدورة الاستثنائية للجمعية العامة. ● القضايا المطروحة للمناقشة ● دور الجزائر في رفع المعاملات حركة عدم الانحياز ★ الخاتمة	• من أجل متابعة تنفيذ توصيات مؤتمر الجزائر لحركة عدم الانحياز 1973 ، دعت الجزائر إلى عقد دورة طارئة للجمعية العامة لهيئة الأمم المتحدة 1974 لمناقشة مسألة المواد الأولية وإقرار نظام دولي جديد . • تتمثل أساسا :- توسيع المناقشة حول القضايا الاقتصادية المطروحة في مؤتمر الجزائر 1973 لحركة عدم الانحياز . - تحسيس الرأي العام العالمي بضرورة إقرار نظام اقتصادي دولي جديد عادل • تتلخص القضايا المطروحة للمناقشة في الجمعية العامة لهيئة الأمم في النقاط الآتية :- - إقامة الحوار بين الشمال والجنوب . - دراسة مسألة المواد الأولية - إقامة عدالة في نظام الأسعار . وإعادة تثمين المواد الأولية والطاقوية . - توفير المساعدة لدول الجنوب دون شروط . - دراسة قضايا الديون وتراكمها . • لقد تضمن خطاب الرئيس الراحل هواري بومدين في هذه الدورة كل اهتمامات الحركة وتعبيرا عن آمالها في إقامة علاقات اقتصادية دولية عادلة ومتوازنة ، في ظل الحوار والتشاور ، بعيدا عن الضغوط وأساليب النظام الاستعماري الجديد . • هكذا استطاع مؤتمر الجزائر لحركة عدم الانحياز 1973 ، أن يعرف حاسما وبارزا في مسار تحرر الشعوب وتطورها ، فتعاظمت حركة عدم الانحياز نحو تحقيق العدل والسلم الدوليين .	1 6 6 1
★ المقدمة ★ الموضوع ● الدوافع التي جعلت فرنسا على فتح المفاوضات مع الثورة الجزائرية ● مراحل المفاوضات ● النتائج ★ الخاتمة	• بينت العديد من الأحداث عبر التاريخ ، أن القوة العسكرية لا يمكنها أن تكبح طموح الشعوب في تقرير مصيرها ، وأن البديل الأنجح والأرجح هو التفاوض والتفاهم . • هناك جملة من العوامل دفعت فرنسا وأجبرتها على فتح المفاوضات مع الثورة الجزائرية ، وتتلخص فيما يلي :- تصاعد العمل المسلح وإفشال المخططات الفرنسية العسكرية والدبلوماسية . - تحسيس الرأي العام العالمي إلى جانب الثورة الجزائرية . - تكاليف حربية مرتفعة أثرت سلبا على الميزانية ومخططات التنمية بفرنسا . - زيادة التلاحم الشعبي مع الثورة (مظاهرات 11 ديسمبر 1960 التي أبهرت الجزائر ديغول على الاعتراف ...) . • هناك ثلاث مراحل رئيسية للمفاوضات الجزائرية الفرنسية هي: - مرحلة حسن الشيفون في مولان ، جوان 1945 - مرحلة الاتصالات السرية في لوسيرن نيسان 1961 - مرحلة مفاوضات إيفيان الأولى ماي 1961 والثانية مارس 1962 التي تمخض عنها توقيف النار. • أفضت المفاوضات الجزائرية الفرنسية على جملة من النتائج أهمها :- - توقيف النار 19 مارس 1962 . - الاستفتاء 1 جويلية 1962 . - إقامة تعاون اقتصادي ثقافي بين الدولتين - حصول فرنسا على بعض التسهيلات العسكرية والثقافية . • لقد استعادت الجزائر سيادتها بعد كفاح مرير ، وتخلصت من بعض القيود التي حاولت فرنسا فرضها عليها	1 6 6 1

سلم التنقيط

المادة :- جغرافية الشعبة :- تسيير واقتصاد الدورة :- جوان 1997

(186)

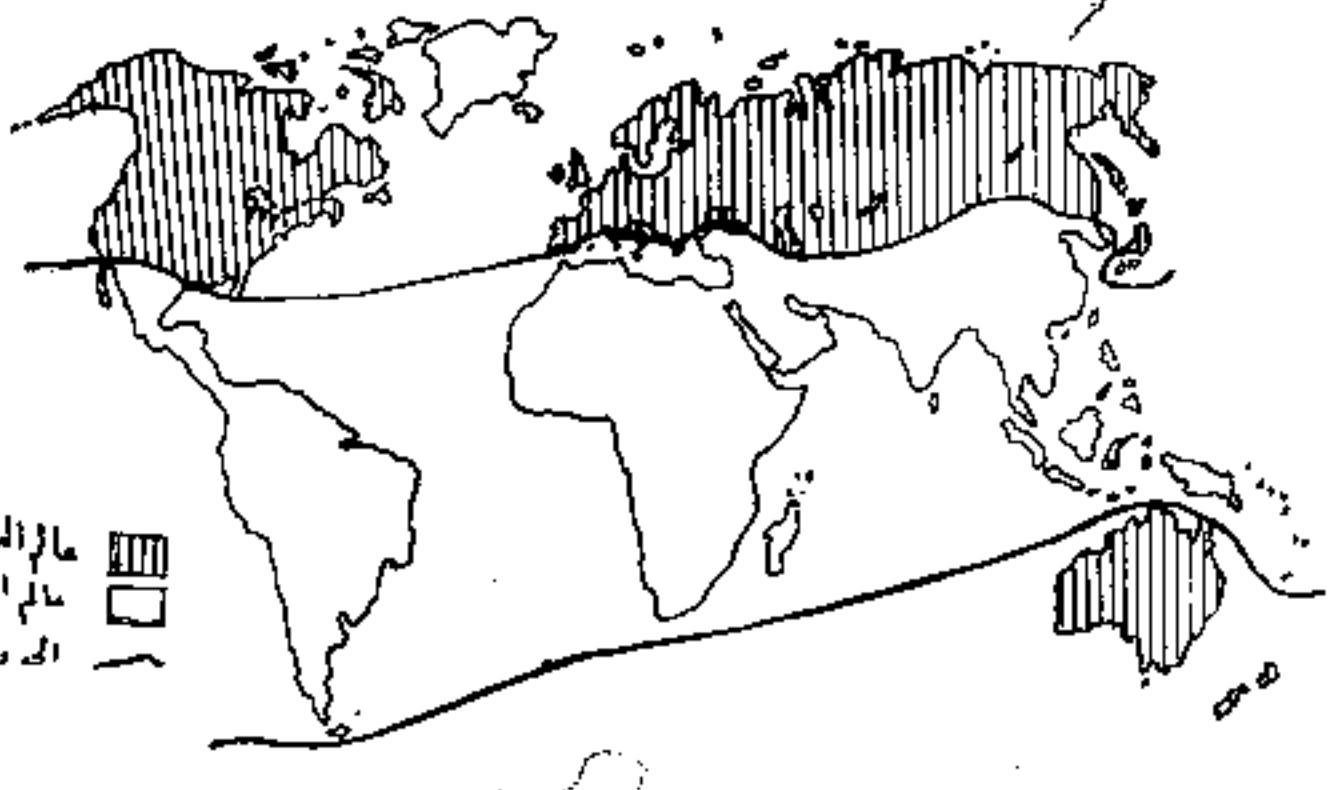
محاور الإجابة	عناصر الإجابة	العلامة
★ المقدمة ★ الموضوع • العوامل المساعدة	• تجسد البيانات الدرجة المرموقة التي حققتها الزراعة الهندية ، والتي بلغت درجة الاكتفاء الذاتي لأزيد من ٥٥٥ مليون نسمة ، حيا بلغت نسبة ٣٥ ٪ من الدخل الوطني الإجمالي. • هناك مجموعة من العوامل الطبيعية والبشرية ، ساعدت على تطوير الزراعة في الهند رغم الكوارث التي تسببها الأعاصير الموسمية العنيفة ، والمعتقدات التي تحرم استخدام البقر وأكل لحومها ... وتتلخص تلك العوامل المساعدة فيما يلي :- - سهول شاسعة تخترقها أنهار غزيرة دائمة الجريان أهمها نهر الغانج وروافده ، وتبلغ نسبة الأراضي الزراعية ٥٤٪ من مجموع المساحة الكلية (3287263 كم²) - تربة خصبة وبرمانية خصبة . - مناخ مداري وموسمي ، وموارد المياه (شبكة الأنهار) ساعد على إنتاج محصولين من الأرز ... في السنة . - - تطبيق الثورة الخضراء 1965 التي حققت قفزة كمية ونوعية في الاستصلاح والإنتاج مثل	1 5 5
• المظاهر • دور الزراعة في الاقتصاد الهندي	- توسيع الأراضي الزراعية المروية من ٤٤ مليون هكتار سنة 1950 إلى 76 مليون هكتار سنة 1990 ثم 80 مليون هكتار سنة 1991 ... كما تطور إنتاج الأرز من 35 م ط سنة 1955 إلى 118 م ط سنة 1991 ، وإنتاج القمح من 9 م ط سنة 1955 ، 56 م ط سنة 1993 . هذا ، وتحتل الهند المرتبة 3 عالميا في إنتاج الأرز ، والمرتبة 3 في إنتاج القمح ، والثالثة في الحبوب والثانية في قصب السكر ، والأولى في التبغ ... وإن الزراعة الهندية تساهم بنسبة 60 ٪ من مجموع اليد العاملة و 30 ٪ من مجموع الدخل الوطني الإجمالي.	4
★ الخاتمة	• إن هذه النتائج لا تطمس الواقع المأساوي للسكان الذين القطاع التقليدي الغريب لا يملك الأرض والوسائل الضرورية للإنتاج ، مما يجعل الأسر الفلاحية تعيش الفاقة والبؤس ، ويعيش هذه الوضعية أزيد من ٥٠ ٪ من مجموع السكان .	1
★ الخريطة	• تعيين مناطق زراعة الأرز والقمح والذرة على خريطة صماء للهند .	4

★ الخريطة ★ المقدمة ★ الموضوع • مفهوم الشمال والجنوب جغرافيا واقتصاديا	• تعيين على الصور الشمال والجنوب على خريطة العالم الصماء حسب المناطق أدناها (الجواب مرفق بالسلم) • هناك مفهومان أساسيين يستعملان لتقسيم دول العالم إلى مجموعتين أساسيتين : دول الشمال ودول الجنوب تتميزان عن بعضهما ، بمفهوم جغرافي ومفهوم اقتصادي . • يتصف بالمفهوم الجغرافي تقسيم الأرض إلى نصفين : نصف الكرة الشمالي ونصف الكرة الجنوبي ، والفاصل بينهما هو الدائرة الاستوائية ، لكن التقسيم الدولي المعمول به ذلك وإنما هو التقسيم الذي يقسم الدول إلى مجموعتين : دول متقدمة غنية تقع معظمها في شمال الكرة الأرضية (شمال مدار السرطان) وبعضها في الجنوب مثل استراليا وجنوب أوروبيا ... جنوب مدار الجدي . - دول متخلفة فقيرة تقع كلها جنوب مدار السرطان ، وبذلك يكون أساس التقسيم أساس اقتصادي وجغرافي معا .	4 1 6
• أسباب تقدم دول الشمال	• هناك جملة من الأسباب أهمها : - ظهور الصناعة وتطور الحضارة المادية . - استغلال المواد الأولية والأسواق العالمية إبان الفترة الاستعمارية وبعدها . - السيطرة على المؤسسات الاقتصادية والمالية العالمية - تعاونها ضمن تجمعات اقتصادية إقليمية دولية . - استقرارها السياسي بعد الحرب ع ع .	4 4
• أسباب تخلف دول الجنوب ★ الخاتمة	• الإرث الاستعماري ، وضعف التحكم في استغلال الموارد ، - عدم الاستقرار السياسي ... الخ • إن الإساس الحضاري والاقتصادي هو الذي ينعكس على النتائج الدولية في الماضي والحاضر ، وكل البيانات تابثة لكن الاستغلال	1 1

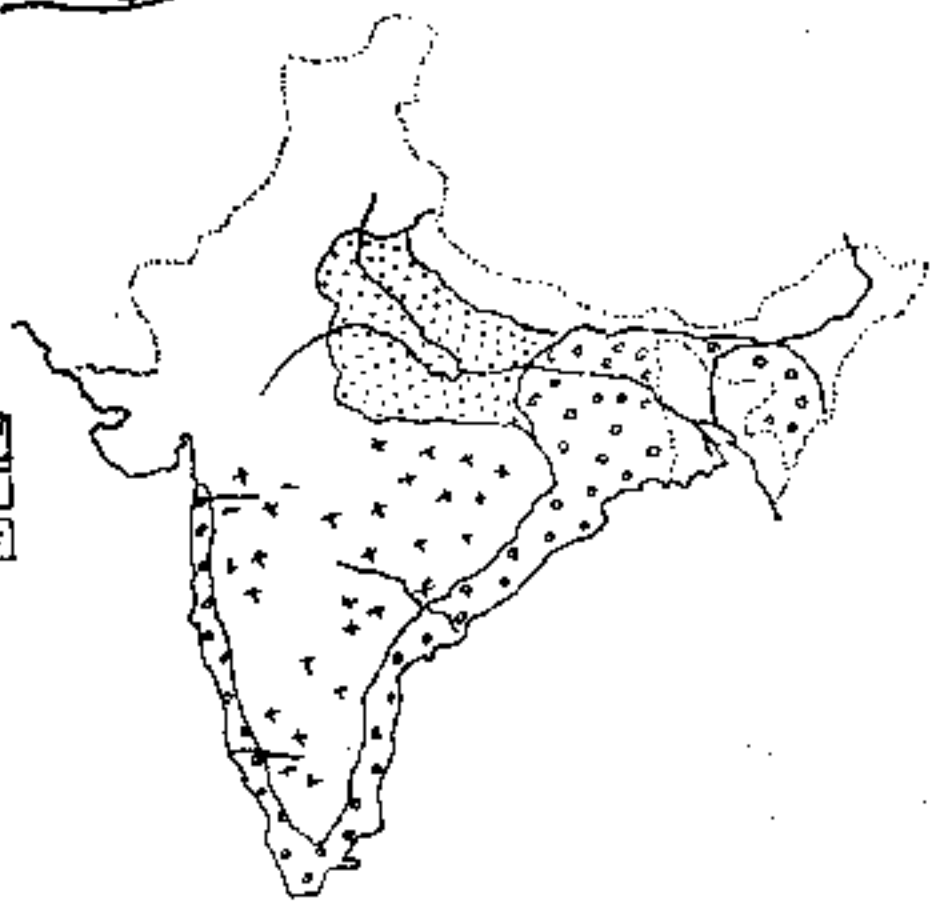
★ المثل الياباني ★ المقدمة (استقراء البيانات) • دور كل قطاع • الخصائص • المشاغل . • الخاتمة .	• دارتان نسبيتان تشتغلان نسبيا مساهمة القطاعات الاقتصادية الثلاثة في التشغيل والدخل الوطني في اليابان ، (الوسائل مرفقة بالسلم) . • تعتبر اليابان قوة اقتصادية عالمية رغم ما تفتقره من تدمير من جراء الحرب ورغم تطرف الوسط الطبيعي . - دور كل قطاع في الاقتصاد الياباني : - انخفاض مساهمة الزراعة في الدخل والتوظيف مؤشر واضح لعدم ملاءمة الوسط الطبيعي والتوجه الصناعي لليابان وهذا الانخفاض يشير إلى ميل اليابان إلى تغطية بعض حاجاتها الغذائية بواسطة الاستيراد. - ارتفاع نسبة مساهمة الصناعة في الدخل والتشغيل يعكس اقتصاد اليابان على الصناعة كقطاع استراتيجي أساسي لتطوير الاقتصاد والمجتمع بشكل عام . - ارتفاع نسبة مساهمة الخدمات في الدخل والتشغيل يعكس الخبرة الفنية العالية لليابان المتواجدة في كل المجالات - خصائص الاقتصاد الياباني : - الاتجاه الصناعي لاحتلالها مرتبة عالمية متقدمة في صناعة السيارات الصلب . - انخفاض تكاليف الإنتاج - استعداد ها التكنولوجيا متطورة - ارتباط الصناعة خارجيا طاقويا ، معدنيا . - المشاغل : التبعية الطاقوية والمعدنية - فعجز اليابان عن العالم الخارجي - ضيق المجال الجغرافي -	4 1 6 4
	• تزايد القوة الاقتصادية اليابانية أصبح يشكل خطرا على القوى الاقتصادية التقليدية وقد سقد منها الوسم	1



شكل-١-



شكل-٢-



شكل-٣-

دائرة نسبية

تمثل نسبة اليد العاملة في القطاعات الثلاثة : الزراعة - الصناعة - الخدمات.

في اليابان

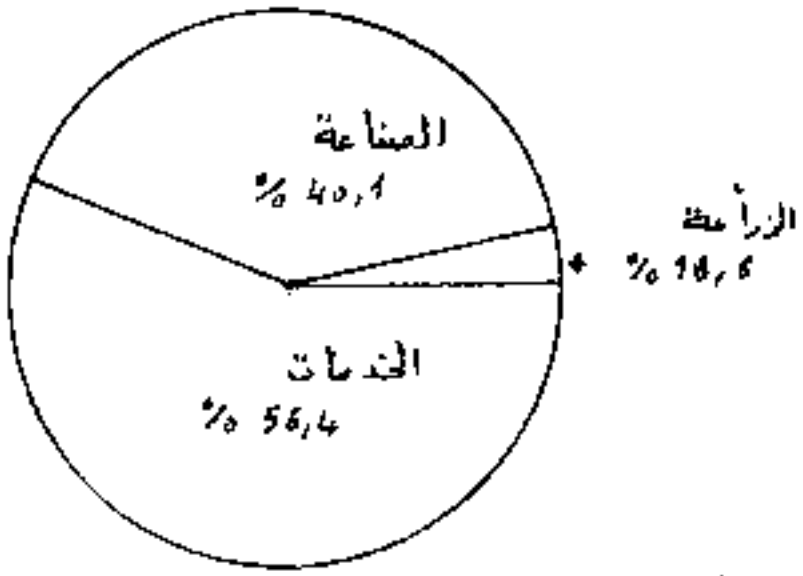


188

دائرة نسبية

تمثل نسبة المساهمة في الدخل القومي للقطاعات الثلاثة : الزراعة - الصناعة - الخدمات .

في اليابان



ملاحظة :

ترسم الزوايا الممثلة للنسب المائوية بعد تحويل القيم النسبية إلى قيم زاوية مثل :

حساب الزاوية الممثلة لنسبة الشغيل في الزراعة :

$$\begin{array}{ll} 360° & \Leftrightarrow \% \ 100 \\ x° & \Leftrightarrow \% \ 7,4 \end{array}$$

$$x = \frac{360 \times 7,4}{100} = 25,96$$