الجمهورية الجزائرية الديمقراطية الشعبية

ة التربية الوطنية — الديوان الوطني للامتحانات والمسابقات

امتحان بكالوريا التعليم الثانوي

دورة جوان 1998

شعب :آداب وعلوم إنسانية + آداب وعلوم إسلامية + آداب ولغات أجنبية + تسيير و إقتصاد . — المدة : 3 ساعات

اختبار في مادة التاريخ و الجغرافيا

ب على **سؤال** في التاريخ **وسؤال** في الجغرافيا

التـــــاريـــــخ

ؤال الأول : إن حركة عدم الانحياز التي ظهرت إلى الوجود عام 1961 تعيش اليوم عقدها الرابع في ف دولية مختلفة عن تلك التي شهدت ميلادها .

طلوب : حلل العبارة مبينا ما يلي :

1 ـ الظروف التي نشأت فيها حركة عدم الانحياز

2 ـ طبيعة الظروف الدولية الراهنة .

3 ـ مصير الحركة في ظل الظروف الدولية الراهنة .

ؤال الثاني :

في 23 جويلية 1956 أعلن جمال عبد الناصر تأميم قناة السويس بمصر مما أثار ضجة يب في إعتداء ثلاثي عليها في أكتوبر من نفس السنة .

طلوب :

ن دوافع التأميم المصري لقناة السويس .

اهي دوافع الاعتداء الثلاثي على مصر لكل دولة مشاركة في العدوان ؟

اهي نتائج هذا العدوان على مصر ؟ و على الدول المعتدية ؟ و على العلاقات الدولية يومها ؟

ؤال الثالث :

رحات عباس واصفا مجازر 8 ماي 1945 بسطيف

شكل الموكب في حيّ المحطة قرب المسجد الجديد ، ثم توجه إلى المدينة وكان محفوفا بالشرطة . ولما اقترب صى المقاهي وسط المدينة برز كوميسار الشرطة ، وحاول نزع الراية الجزائرية من يد متظاهر فصمد له ل الجزائري ،فأطلقت الشرطة الرصاص وأودت بحياة جزائري وجرح عدد من المتظاهرين ... وتدخل الجند يز الشرطة، فاستشهد العديد من إخواننا وجرح الكثير منهم فتكالبت جيوش اللفيف الأجنبي على ا ... كالوباء المنتشر ، فالنساء مسبيات ، والأرواح مزهقات والدماء مهرقات . وأطلق المعمرون العنان يتهم ، فلم يروا مسلما إلا قتلوه ، وجريحا إلا وأجهزوا عليه ، فرووا من دماء المسلمين غليلهم ، وكل هذا المدنية والحضارة ...»

طلوب : حلل النص مبرزا :

1 ـ الأفكار الأساسية التي تضمنها النص.

2 ـ اسباب مجازر الثامن ماي 1945 .

3 ـ نتائج المجازر على الدولة الاستعمارية والحركة الوطنية الجزائرية .

الجغرافيا

السؤال الأول : إليك معطيات إحصائية حول الزراعة في الصين الشعبية لسنة 1995 .

المحصول	القمح	الذرة	الارز	الشاي
كمية الانتاج مليون طن	100	107.3	179.6	0.6
المرتبة العالمية	1	2	1	2
نسبة الانتاج إلى الانتاج العالمي	18.6	21.2	33	22.6

عن مجلة صور العالم الاقتصادية 1996

المطلوب :

1 ـ مثل كمية الانتاج بواسطة الأعمدة البيانية . مقياس الرسم 1 سم = 20 مليون طن ـ 1 سم = عمود .

2 ـ علق على الرسم مبينا مايلي :

أ ـ السياسة الزراعية في الصين منذ 1949 و تطوراتها .

ب ـ مكانة الزراعة في الاقتصاد الصيني .

السؤال الثاني :

إن الوطن العربي يستهلك يوميا 700 مليون رغيف خبز ، و يستورد مكونات 500 مليون رغيف ، إضافة إلى الاجهزة التي تدخل في صناعة الخبز ، و قد فاقت بذلك تكلفة الواردات العربية من الغذاء ، 30 مليار دولار سنة 1988 .

المطلوب : اشرح العبارة مبينا

1 ـ اسباب اختلال التوازن بين انتاج القمح واستهلاكه في الوطن العربي .

2 ـ وقع على الخريطة المرفقة ، مناطق انتاج القمح في الوطن العربي مع التعليق

السؤال الثالث :

إليك جدولا يبين نسبة مشاركة بعض دول المجموعة الاقتصادية الاوربية في التجارة العالمية لسنة 1993 .

الدول	المانيا	فرنسا	بريطانيا	إيطاليا	بلجيكا + اللكسمبورغ	اسبانيا	الدانمارك	ايرلندا	البرتغال	اليونان	هولندا
%	9,74	5,49	5,15	4,24	3,30	1,85	0,90	0,67	0,53	0,43	3,52

1 سم = 1 %

1 سم = عمود (لولة)

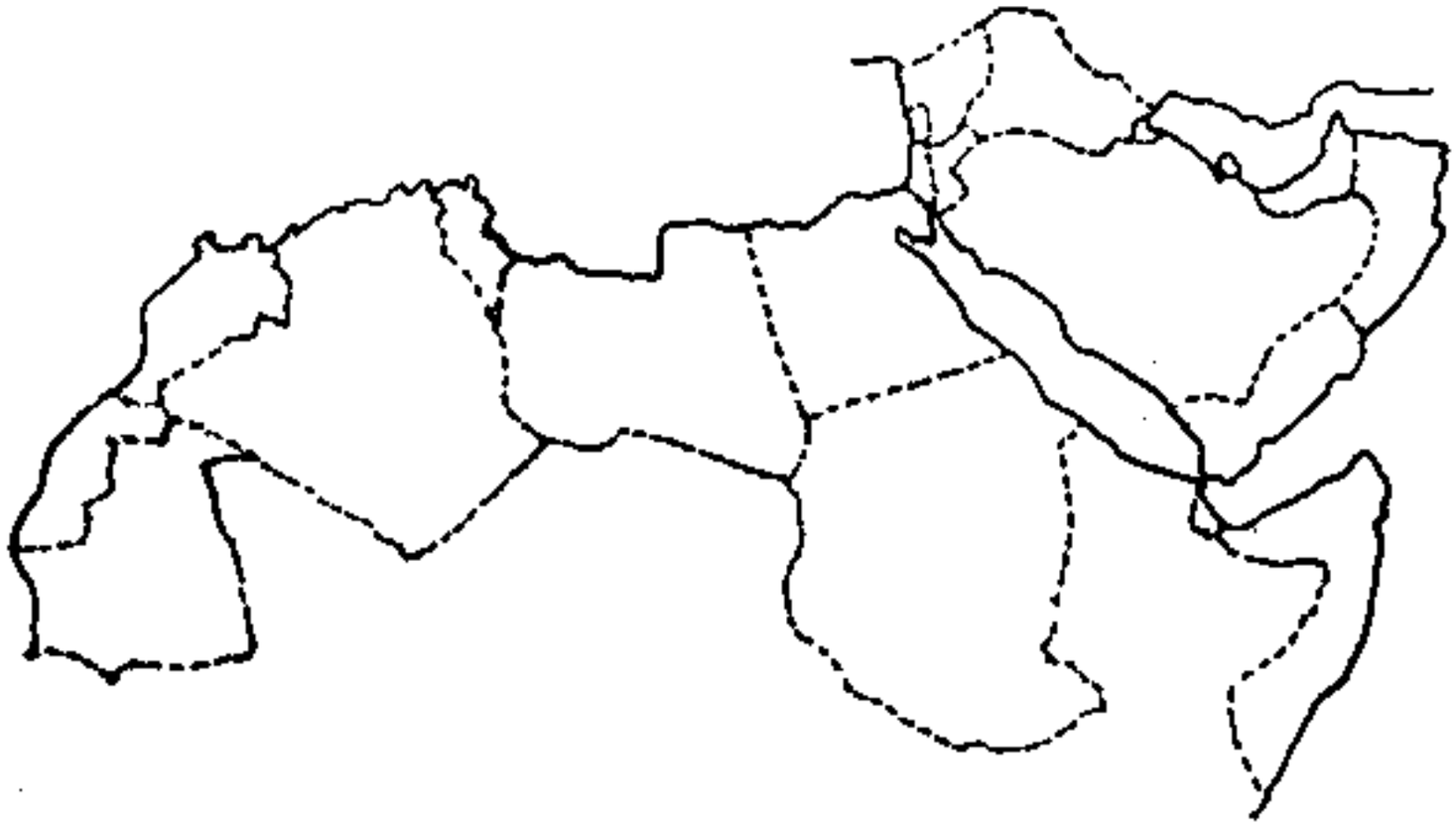
المطلوب :

أ ـ مثل النسب الواردة في الجدول بواسطة الأعمدة البيانية مع التعليق عليها

ب ـ أبرز مكانة المجموعة الاقتصادية في التجارة العالمية مع التعليل .

جـ ـ وضح علاقة المجموعة الاوروبية مع دول العالم الثالث .

خريطة الوطن العربي



تعاد الخريطة المرفقة من طرف المترشح بعد أن ينجز عمله عليها .

محاور الموضوع	عناصر الإجابة	العلامة
السؤال الأول	المنديقة: - حركة عدم الإنحياز بين أهدافها ومبادئها في ظل التطورات الدولية المتتابعة واستمرارية فعاليتها في الظروف الدولية الراهنة	04
1 - الظروف التي نشأت فيها الحركة	1 - الصراع الدولي (الحرب الباردة 47 وآثارها على دول الجنوب ② الحرب الكورية - الهند الصينية - أزمة الشرق الأوسط - الكونغو 2 - انحسار الاستعمار التقليدي (الأوربي) وبداية حركات التحرر الوطني - وعودة الاستعمار بثوب جديد - سياسة حلف الأطلسي والهيمنة الأمريكية 3 - التبعية الاقتصادية ②	06
2 - طبيعة الظروف الدولية الراهنة	① - نهاية الحرب الباردة بشكلها التقليدي، تصدع الكتلة الشرقية بعد تفككها وانهيارها. ② - سيادة التعددية الأحادية بقيادة الولايات المتحدة الأمريكية ③ - استمرار الصراع بين الشمال والجنوب - الاختلال النظام الاقتصادي العالمي)	06
3 - مصير الحركة في ظل الظروف الدولية الراهنة	① - نهاية الحرب الباردة لا تعني توقف نشاط الحركة. ② - إعادة بناء استراتيجية نشاط الحركة على ضوء الظروف المستجدة مثل ③ ③ + التضامن جنوب - جنوب ④ + التخلص من المديونية - أزمة الغذاء - الحصول على التكنولوجيا (التحالفات بين الشمال والجنوب)	06
الخاتمة:	ضرورة وحتمية إعادة بناء استراتيجية جديدة للحركة لمواجهة التحديات العالمية	02

السؤال الثاني: تحليل واقتصاد.

	عناصر الاجابة	مضمون الاجابة	التنقيط
01	التعقد منه	- تعميق ظاهرة التحرر من خلال التأهيم لأهم مورد اقتصادي. - أو من خلال (كل ما يتصل بالثورة المصرية ذا صلة بالسؤال)	02
04	ماضي دوافع التأهيم المصري وأطاره العام.	- بلورة مفهوم الاستقلال بالسيطرة على الموارد الاقتصادية الخاضعة للاستثمار والاستفادة منها في التنمية الوطنية. (2.5) تصفية النفوذ الأجنبي بكل أشكاله.	04
05	ماضي دوافع الاعتداء على مصر من كل دولة مشاركة في العدوان	فرنسا: فشل الثورة المصرية عن الثورة الجزائرية بتوجيه الضربة لمصر حقنا لها عن دعمها للثورة الجزائرية وتوقيف هذا الدعم ليسهل حسب زعمها اخماد الثورة التحريرية بسهولة وبكلفة بسيطة وبسرعة. (1) يرتبط أيضا بالتمسك بنفوذها في القناة لضمان حرية التنقل والمواصلات بين أوطاء الكومنولث. - الاحتفاظ بالوجود العسكري بالقناة والمحافظة على الصيغة الاقتصادية بالمنطقة من خلال مراقبة المرور بالقناة. (1)	06
		اسرائيل: العمل على استكمال مشروع دولتها من الفرات الى النيل: (1) - القضاء على الثورة المصرية ودعم الثورة العربي. - ضمان حرية الملاحة في القناة.	
06	نتائج العدوان على مصر والدول المعتدية والعلاقات الدولية	(1) - عزل الثورة المصرية وكلفتها جعل منها قطبا عربيا ودوليا. (1) - التحدي المصري واستمرارية انجازات الثورة خاصة مشروع السد العالي. (1) - لجوء مصر الى الكتلة الشرقية والتعامل معها. (1) - الخسائر المادية والعسكرية والسياسية التي ضمنت بها الدول المعتدية. (1) - خسارتهم للقناة بزوال صيغة برطانيا عليها.	06
		- أزمة العدوان الثلاثي على مصر دفعت الطرفين المتصارعين الى الاعتراف بأهمية التعايش السلمي ويتضح ذلك من خلال موقفهما من العدوان (تشجب الاعتداء)	
05	الخاتمة	إن إرادة الشعوب في التحرر هي التي تصنع الانتصارات	02

(2/8)

آداب وعلوم انسانية - فروع تاريخ - لغات اجنبية
46
حسين واحتهاد.

دة التاريخ السؤال الثالث.	عناصر الإجابة	التنقيط
المقدمة	- تحديد الاطار الزماني : ماي 1945 ، في الثامن منه . - الاطار المكاني : معظم انحاء الجزائر عامة وقسنطينة خاصة. (0.5) - صاحب النص : فرحات عباس من زعماء الحركة الوطنية : (1) زعيم دعاة الاندماج - حمل رئيسي في تقديم عريضة البيان الجزائري 1943 - الرئيس الأول للحكومة المؤقتة الجزائرية - طبيعة النص التاريخي : الثورة (وصف مجازر ماي) (0.5) (1)	03
الأفكار التي تضمنها النص	- وصف مجزرة 8 ماي 45 بسطيف من خلال : (1) * طبيعة المظاهرة الشعبية . (1) * موقف الشرطة الفرنسية . (1) * موقف المستوطنين . (1) * موقف اللفيف الأجنبي .	04
أسباب المجزرة	- مطالبة الجزائر بين بالوفاء بالعهود ذات الصلة بحق قهم في الحرية والاستقلال كثمرة لوعيهم (0.5) وحرصهم على استقلال الوطن لانتزاع حقوقه المطالب. - اصرار فرنسا وعنادها المتمثل في الحفاظ على المستعمرات مهما كان الثمن كمظهر للوطنية والمكانة والقوة. (0.5) - انتصاح أسلوب القمع والتقتيل والتنكيل بالمدنيين لاضعاف صفوف الحركة الوطنية. (0.5) - التظاهر بالقوة العسكرية حتى لا يتجرأ الشعب الجزائري على مواجهة عسكريا. (0.5)	06
نتائج المجزرة على الحركة الوطنية وعلى الدولة الاستعمارية	- وضوح الرؤيا أمام الحركة الوطنية. (1) - اعادة بناء الحركة الوطنية بوضع لبنة جديدة في مسارها والاتجاه نحو العمل المسلح (1) - تعرى الكراهية للمستعمر والتأكد من خداعه (1) - اهتزاز المكانة الفرنسية وسمعتها لدى الرأي العام العالمي من جراء همجية القوات الفرنسية في حق شعب أعزل (1) - الاقدام على محاولات اصلاح وهمية لا تمس المطالب الجذرية للجزائريين رغبة في امتصاص غضبهم. (1)	05
الخاتمة	كانت مجازر 8 ماي 1945 البذرة التي أوصلت نضال الجزائر إلى تفجير 1954.	02 (3/8)

سلم التنقيط

(4.7)

المادة : ....جغرافيا.....

الموضوع رقم :01..

الشعبة :آداب وعلوم إنسانية،علوم شرعية،لغات أجنبية

تسيير و إقتصاد

محاور الموضوع	عناصر الإجابة	العلامة
المقدمة	الوثيقة جغرافية اقتصادية تتناول بعض المحاصيل الزراعية، والتي توضح بيانات الإحصائية أن الزراعة تحتل مكانة متميزة في الاقتصاد الصيني على مستوى الاكتفاء الذاتي وعلى مستوى التوزيع العالمي .	02
العرض	أ- السياسة الزراعية في الصين : مرت السياسة الزراعية في الصين بـ 3 مراحل : (2) أ- مرحلة النظام التعاوني (1949 - 1958) تعاونيات زراعية شبه اشتراكية . (2) ب- مرحلة الكومونات الشعبية (1958 - 1976) الانتاج الزراعي الصناعي والخدمات . (2) ج- مرحلة الاستثمارات والانتاج بتحرير الانتاج الزراعي (بعد 1976)	06
	ب- مكانة الزراعة في الاقتصاد الصيني : (4) استطاعت الصين في فترة قصيرة أن تحقق قفزة جبارة في الميدان الزراعي : - المرتبة الأولى عالميا في انتاج الأرز 188 مليون طن وتحقيق فائض للتصدير. (1) - المرتبة الأولى عالميا في انتاج القمح 103 مليون طن (1993). - الصيد البحري عام 1991 بـ 13,3 مليون طن كـ (1) من يمثل عدد سكانها 1/4 سكان العالم . و يشغل قطاع الزراعة 63 ٪ من اليد العاملة وتساهم بـ 35 ٪ من الدخل الوطني .	03
	التمثيل مع التعليق : - تمثيل الأرقام الجدول بأعمدة .	03
	التعليق : (1) - اهتمام الصين الشعبية بإنتاج المواد الأساسية (زراعة الحبوب) خاصة الأرز باعتباره الغذاء الرئيسي. (1) - مساهمة الصين في الانتاج العالمي . (1) - تحقيق الأمن الغذائي (خاصة الحبوب الاستراتيجية) رغم العدد الهائل من السكان وتحقيق فائض للتصدير الأرز"	04
الخاتمة	لقد توصلت الصين الشعبية بفعل العمل الجاد إلى توفير الغذاء رغم العدد الضخم للسكان، وتحقيق فائض في سبيل الحياد.	02

(4.8)

(48)

: ...جغرافيا...

وع رقم :02...

الشعبة :آداب وعلوم إنسانية،علوم شرعية،لغات أجنبية

تسيير و إقتصاد

العلامة	عناصر الإجابة	الموضوع
04	ظاهرة الاستهلاك في الوطن العربي ⇐ انعدام التوازن بين الانتاج والاستهلاك . أو التعريف بالوطن العربي.	مقدمة
04	عوامل اختلال التوازن بين انتاج القمح واستهلاكه:	
04	- العوامل الطبيعية : * الملائمة من شروط زراعة القمح (الحرارة من 5° إلى 25° و (الرطوبة من 500 إلى 1000ملم) و (نوع التربة السوداء الجوداء) و (الانحدار الضعيف للسطح) * قلة مساحة الأراضي الزراعية المخصصة لزراعة محصول القمح في الوطن العربي لاتتوفر على هذه الشروط بصفة مطلقة .	
02	- العوامل البشرية : (1) * غياب الاهتمام الرسمي والشعبي بالزراعة العربية (القمح) . (2) * نقص الكفاءة والخبرة الزراعية .	
02	- العوامل المادية : (1) * قلة الاستثمار في المجال الزراعي . (2) * صعوبة الحصول على التجهيز الزراعي الكافي .	
04	توزيع المحاصيل على الخريطة :	
04	التعليق : * ضآلة الأراضي الزراعية المخصصة لمحصول القمح .	
02	* زراعة محصول القمح لاتنتشر في كل الأقطار العربية .	
02	إن استمرار خطورة الوضع في تأمين الغذاء في أقطار الوطن العربي يؤدي الى التبعية للخارج .	الخاتمة

(5/8)

(49)

المادة : ..جغرافيا.....

الموضوع رقم :..03..

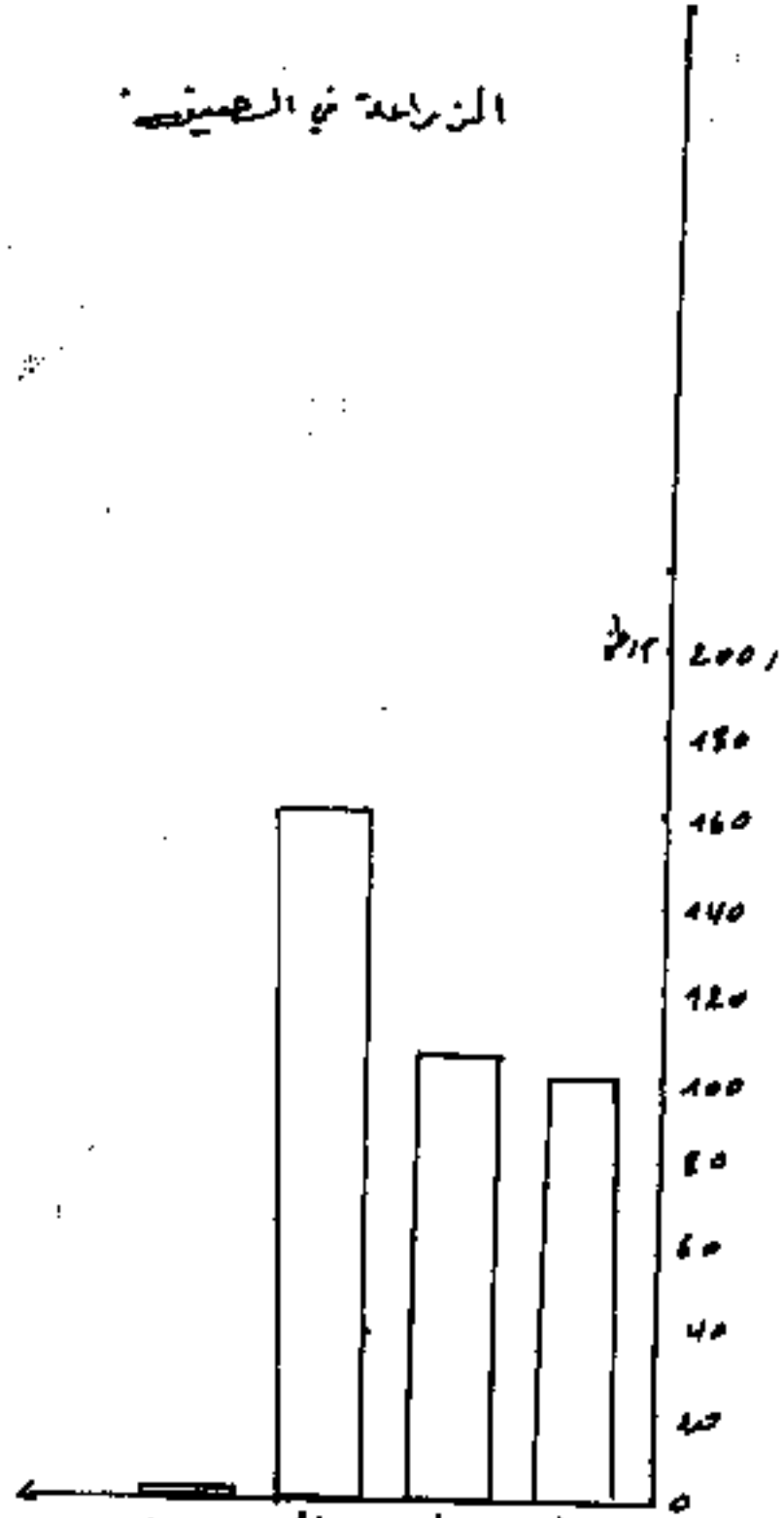
الشعبة :آداب وعلوم إنسانية،علوم شرعية،لغات أجنبية

تسيير و إقتصاد

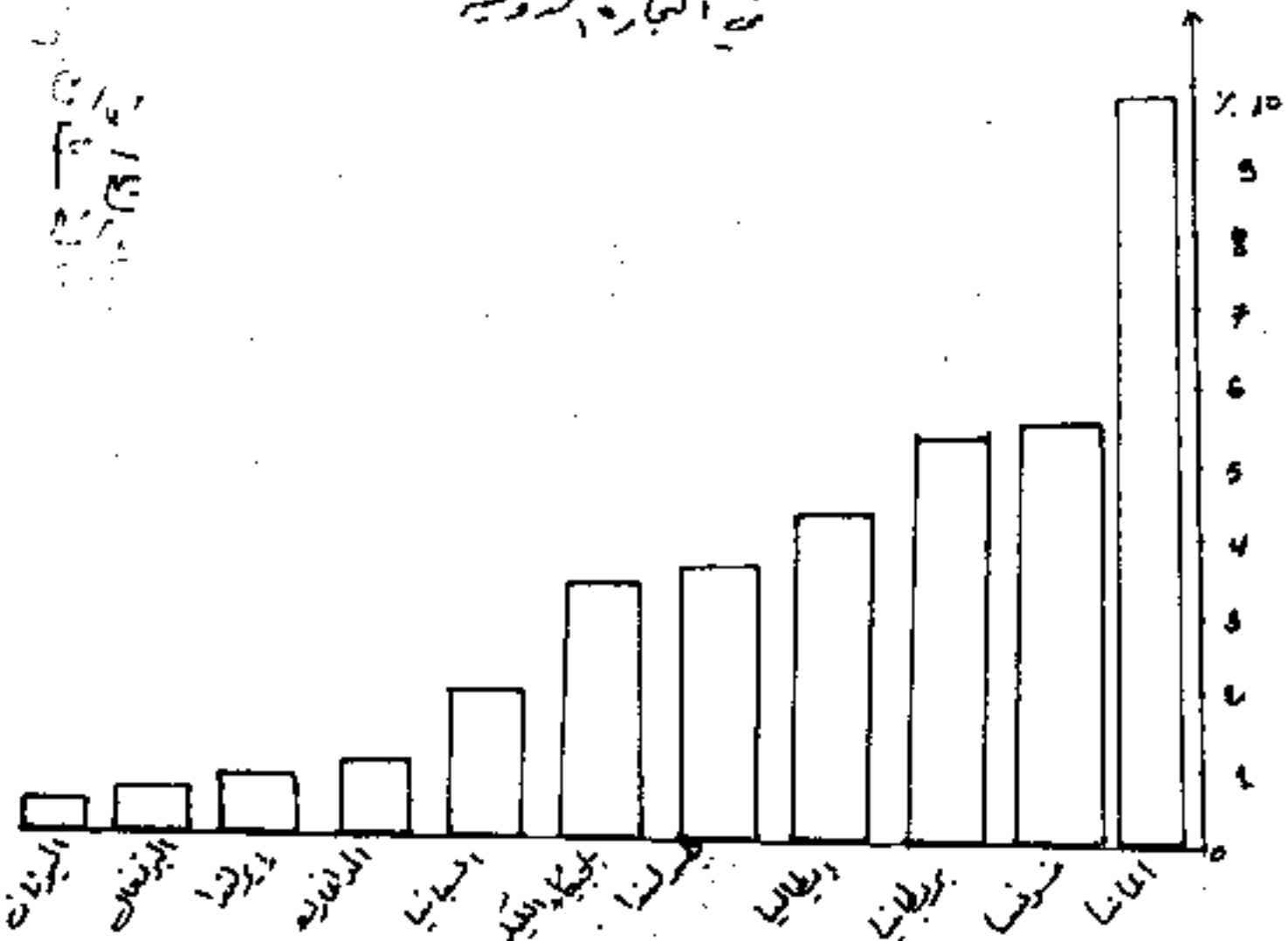
محاور الموضوع	عناصر الإجابة	العلامة
المقدمة	الوثيقة ، اقتصاديات تحاذج مساهمة المجموعة الاقتصادية الأوروبية في التجارة العالمية أو التعريف بالوثيقة	02
	تمثيل النسب بواسطة الأعمدة مع التعليق.	03
	① - بالنظر الى المشاركة الفردية لكل دولة نلاحظ أن نسبة المشاركة العالمية ضعيفة . ② أما نسبة المشاركة كمجموعة اقتصادية نلاحظ ارتفاع لتصل الى 35,82٪ للاحتلال المرتبة الثانية (صناعة كمل أهمية التكتل) .	04
	مكانة المجموعة الاقتصادية الأوروبية في التجارة العالمية مع التعليل : - مكانة المجموعة : ③ تحتل مكانة هامة في التجارة العالمية منافسة بذلك الولايات المتحدة الأمريكية واليابان . - التعليل : ① * فوائض الصادرات والوارادات (ضخامة الأنباء والسوق) ② * الرصيد التاريخي وتجربتها الكبرى في البناء الاقتصادي منذ 1958 . ③ * ارتباطها بالمستعمرات وما تستفيده من موارد طبيعية وخامات زراعية . ④ * المستوى التقني الرفيع . ⑤ * قوة الاستثمارات المالية في الداخل والخارج .	04
	علاقة المجموعة الأوروبية بدول العالم الثالث : أ - علاقة تاريخية (الاستعمار) بريطانيا / فرنسا / البرتغال / هولندا * المجموعة الفرانكفونية / فرنسا . * المعاهدات نصت على الاستقلال وابقاء التعاون بين الدول الأوروبية والمستعمرات . * اتفاقية ياوندي 1963 لومي 1963 (المتجددة) ب - دور الشركات الأوروبية في الاستثمار في الدول المستعمرة ج - الشراكة الأوروبية مع دول العالم الثالث . (العلاقة بين الطرفين علاقة استعمار جديد)	02 02 02
الخاتمة	قوة التجارة الخارجية في المجموعة والابقاء على سيطرتها على العالم الثالث خاصة في أمريكا وآسيا .	02

(48)

الزراعة في الصين



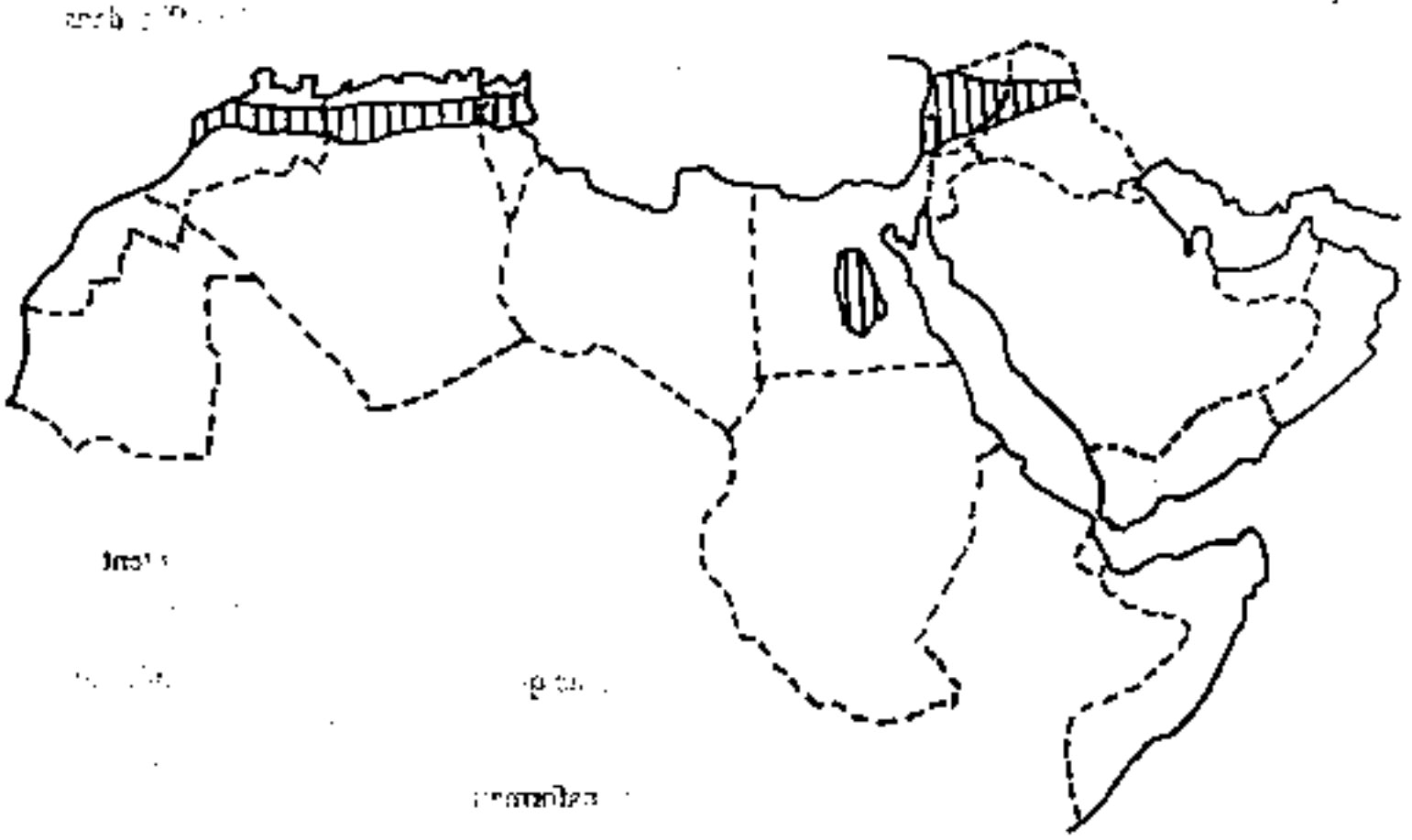
مشاركة بعض دول المجموعة الاقتصادية في التجارة الدولية



(51)

(52)

ضاحيتين إنتاج القمح في الوطن العربي .



(8/8)