الجمهورية الجزائرية الديمقراطية الشعبية

وزارة التربية الوطنية — الديوان الوطني للامتحانات والمسابقات

امتحان بكالوريا التعليم الثانوي (دورة جوان 2005)

الشعبة : علوم الطبيعة والحياة. — المدة : 3 ساعات

اختبار في مادة الفيزياء والكيمياء

I ـ الكيمياء

التمرين الأول : (04 نقاط)

1 / استر (أ) كثافة بخاره بالنسبة للهواء 3,52 ، تم الحصول عليه بتفاعل كحول مشبع أحادي الوظيفة (ب) مع حمض عضوي أحادي الوظيفة مشبع (جـ) .

اكتب الصيغة الجزيئية المجملة للأستر (أ) .

2 / لمعرفة الحمض العضوي (جـ) ، يعاير محلوله المائي الذي يحتوي على كتلة (ك) منه . ولبلوغ نقطة التكافؤ يلزم 30 سم^3 من محلول الصود الذي تركيزه 0,1 مول/لتر حيث ينتج ملح كتلته 0,246 غ .

أ – أكتب معادلة تفاعل التعديل الحاصل .

ب – أوجد الصيغة الجزيئية المجملة للحمض (جـ) .

جـ – استنتج الصيغة الجزيئية المجملة للكحول (ب) .ثم أكتب الصيغ نصف المفصلة الممكنة له مع تسميتها .

3 / للحصول على الإستر (أ) يفاعل 0,2 مول من الكحول (ب) مع 0,2 مول من الحمض (جـ) .

عندحدوث التوازن الكيميائي وجد أن كتلة الاستر المتشكل هي : 12,24 غ .

أ – حدد الصيغة الجزيئية المفصلة الموافقة للكحول (ب) المستعمل .

ب –حدد الصيغة الجزيئية المفصلة الموافقة للاستر (أ) الناتج .

جـ – أحسب ثابت التوازن K لهذا التفاعل .

يعطى : (C = 12 غ / مول ، O = 16 غ / مول ، H = 1 غ / مول ، Na = 23 غ / مول)

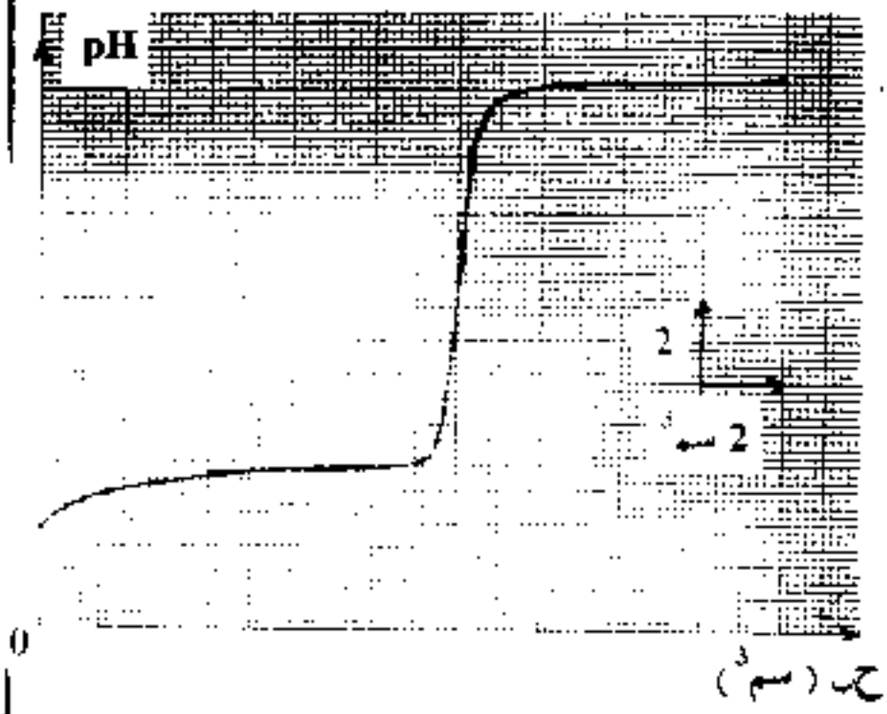
التمرين الثاني : (04 نقاط)

ملاحظة : جميع المحاليل المائية مأخوذة في الدرجة 25^0 م .

نعرفة الصيغة الجزيئية لحمض عضوي مجهول $R-\overset{\overset{O}{\parallel}}{C}-OH$ ، نذيب كتلة 4,6 غ منه في الماء المقطر بحيث نحصل على محلول مائي (مح) حجمه 1 لتر .

نأخذ 20 سم^3 من المحلول (مح) ونعايرها بمحلول مائي لهيدروكسيد الصوديوم تركيزه ت = 0,2 مول/لتر.

يعطي البيان الموالي تغيرات pH المحلول بدلالة حجم محلول هيدروكسيد الصوديوم المضاف .



1 / أ – عين إحداثيي نقطة التكافؤ .

ب – استنتج التركيز المولي للمحلول (مح) .

جـ – استنتج الصيغة الجزيئية للحمض المستعمل واذكر اسمه .

د – بين أن الحمض المستعمل حمض ضعيف .

2 / أكتب معادلة انحلال الحمض في الماء .

3 / أذكر الأفراد الكيميائية المتواجدة في المحلول قبل المعايرة واحسب تراكيزها المولية .

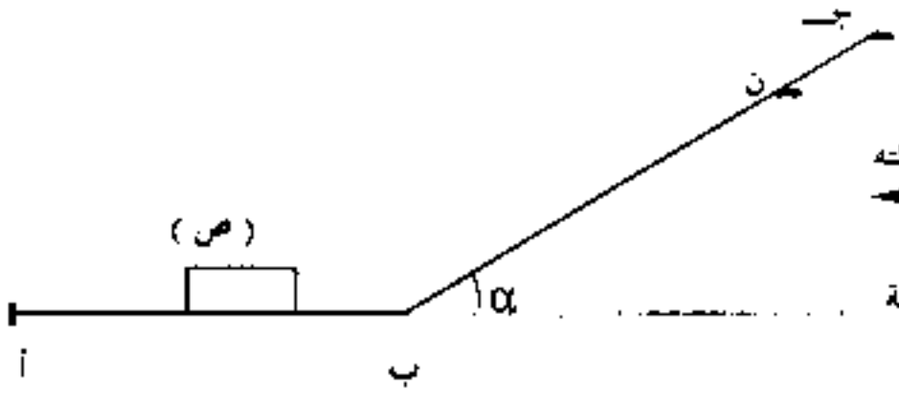
4 . عين قيمة pK_A الثنائية $(RCOOH / RCOO^-)$

تعطى : (C = 12 غ / مول ، O = 16 غ / مول ، H = 1 غ / مول ، $10^{0.6} \approx 4$)

II ــ الفيزياء

التمرين الأول : (04,5 نقاط)

ينتقل جسم (ص) كتلته ك = 200 غ على المسار (أ ب جـ) ويخضع أثناء حركته على طول هذا المسار إلى قوة احتكاك $\overrightarrow{ق}$ حاملها موازٍ لمحور الحركة وجهتها معاكسة لجهة الحركة وشدتها ثابتة .

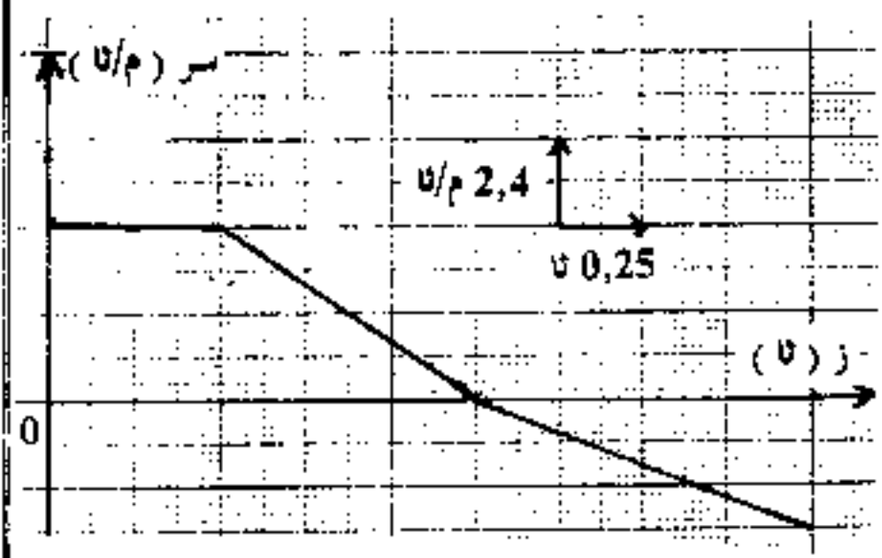


الشكل ــ 1 ــ

يتكون المسار (أ ب جـ) من جزأين : الجزء (أ ب) مستقيم أفقي ، والجزء (ب جـ) مائل عن الأفق بزاوية α . (الشكل ــ 1 ــ)

يتحرك الجسم (ص) على الجزء (أ ب) بسرعة ثابتة تحت تأثير قوة جر أفقية $\overrightarrow{ق}$ شدتها ثابتة. ينعدم تأثير $\overrightarrow{ق}$ عندما يصل الجسم (ص) إلى النقطة (ب) ويصعد بعد ذلك وفق المستوي المائل (ب جـ) ويغير جهة حركته عندما يصل إلى النقطة (ن) .

يعطي المخطط المقابل (الشكل ــ 2 ــ) تغيرات سرعة الجسم (ص) بدلالة الزمن خلال الأطوار الثلاثة للحركة.



الشكل ــ 2 ــ

1 / استنتج اعتمادا على البيان : أ – طبيعة الحركة في كل مرحلة وأحسب تسارعها .

ب – المسافة الكلية المقطوعة خلال المراحل الثلاث .

2 / بتطبيق نظرية مركز العطالة أوجد : أ – زاوية الميل (α) للمستوي المائل (ب جـ) .

ب – شدة قوة الإحتكاك ق .

جـ – شدة قوة الجر ق .

يُعطى : ج = 10 م / ث^2 .

التمرين الثاني : (04 نقاط)

يُشد حبل مرن طوله ل = 2 م أفقيا . أحد طرفيه (م) ، مثبت برنانة تهتز شاقوليا بتواتر (ن) وبسعة (ب) ، فتنتشر على طول الحبل أمواج عرضية متقدمة . تعطى المعادلة الزمنية لمنبع الإهتزاز (م) بالعلاقة :

ع م = ب جب (100 π ز + π) .

الشكل – 3 – يمثل صورة للحبل في اللحظة ز$_1$.

نفرض أنه لا يوجد إنعكاس ولا تخامد للأمواج .



الشكل – 3 –

1 / عيّن ، اعتمادا على المنحنى (الشكل – 3 –) ما يلي :

أ – سعة الإهتزاز (ب) .

ب – طول الموجة (ط) .

جـ – سرعة الإنتشار (سر) .

د – اللحظة (ز$_1$) التي أخذت فيها صورة الحبل .

2 / اكتب معادلة اهتزاز نقطة (هـ) من الحبل يصلها الإهتزاز متأخرا عن المنبع (م) بفاصل زمني Δ ز = 5 X 10^{-3} ث . كيف تهتز (هـ) بالنسبة للمنبع (م) ؟

3 / نحقق بالبرنانة ذات التواتر (ن) السابق والحبل السابق تجربة ميلد فتتشكل 4 مغازل .

أ . احسب طول الموجة الجديد (ط$'$) .

ب . أوجد فواصل العقد والبطون بالنسبة لطرف الحبل المقيد .

جـ . احسب قوة الشد في الحبل علما أن كتلته الخطية μ = 5 X 10^{-4} كلغ / م .

تعطى سر = $\sqrt{\frac{ق}{\mu}}$ ويعطى ج = 10 م / ث^2 .

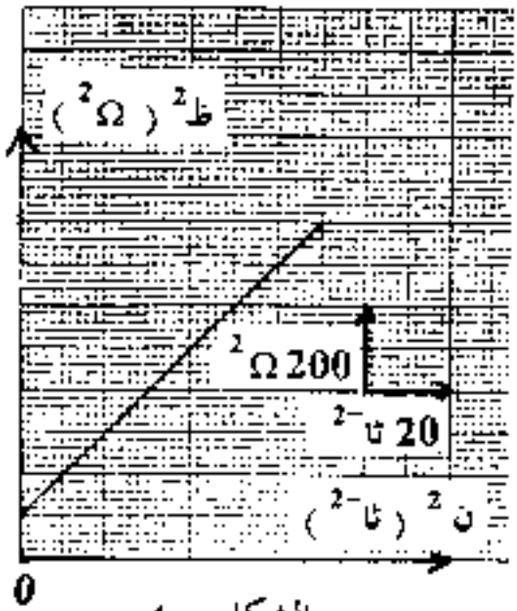
التمرين الثالث : (03,5 نقاط)

في حصة للأعمال التطبيقية ، وبغرض إيجاد المقاومة (مـ) والذاتية (ذ) لوشيعة والسعة (س) لمكثفة ، شكّل الأستاذ مجموعتين من التلاميذ (أ) و (ب) .

1 ــ أُعطيت المجموعة (أ) الأجهزة التالية :

- وشيعة مقاومتها (مـ) وذاتيتها (ذ) .
- مولد لتيار جيبي متناوب تواتره (ن) متغير والتوتر المنتج بين طرفيه ف ـ = 5 فولط .
- أمبيرمتر ، - قاطعة ، - أسلاك توصيل .

كلّفت هذه المجموعة بدراسة تغيرات (ظ^2) بدلالة (ن^2) (ظ ، ممانعة الوشيعة) . فتحصلت على البيان المبين في الشكل ــ 4 .



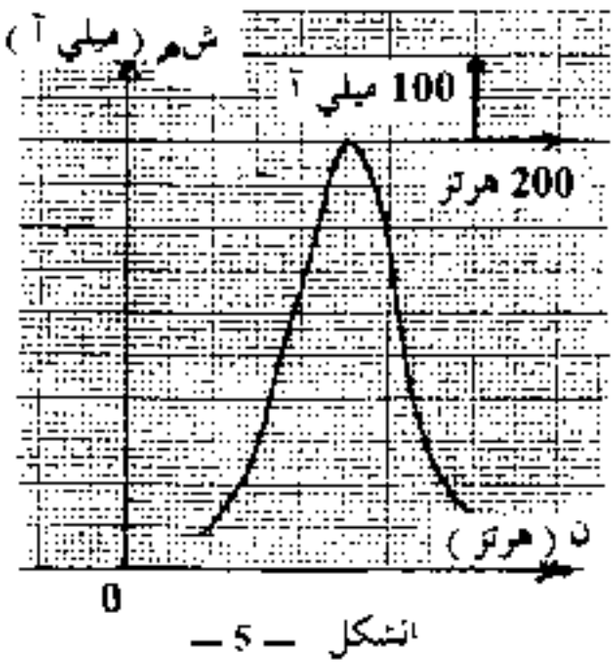
الشكل ــ 4 ــ

استنتج قيمة كل من (مـ) و (ذ) .

2 ــ أُعطيت المجموعة (ب) الأجهزة التالية :

- وشيعة مقاومتها (مـ) وذاتيتها ذ = 0,5 هنري .
- مكثفة سعتها (س) .
- مولد لتيار جيبي متناوب تواتره (ن) متغير والتوتر المنتج بين طرفيه ف ـ = 5 فولط .
- أمبيرمتر ، - فولتمتر ، - قاطعة ، - أسلاك توصيل .

كلّفت هذه المجموعة بدراسة تغيرات الشدة المنتجة للتيار المار بالدارة (ش ـ) بدلالة التواتر (ن) فتحصلت على البيان المبين في الشكل ــ 5 .



الشكل ــ 5 ــ

أ ــ أرسم مخططا للدارة الكهربائية التي حققتها هذه المجموعة .

ب ــ ما هي الظاهرة الفيزيائية التي حققتها هذه المجموعة ؟

جـ ــ استنتج من البيان التواتر (ن$_0$) المستعمل لتحقيق هذه الظاهرة .

د ــ أحسب قيمة كل من مقاومة الوشيعة (مـ) وسعة المكثفة (س) .

تكتب الإجابة النموذجية على هذه الورقة ولا تقبل سواها

الإجابة النموذجية لموضوع مقترح لبكالوريا دورة : 2004

إختبار مادة : الطوم الفيزيائية الشعبة : علوم الطبيعة والحياة المدة : 3 سا

محاور الموضوع	عناصر الإجابة	العلامة مجزأة	العلامة المجموع
	- كيميـــاء -		
	التمرين الأول : (04 نقاط)		
	ا/ م = ك × ع = 102,08 غ/مول ----------	0,25	0,25
	الصيغة العامة للأستر : $C_nH_{2n}O_2$ ----------	0,25	0,25
	$14n + 32 = 102,08 \Leftarrow n = 5$		
	ومنه : الصيغة $C_5H_{10}O_2$ ----------	0,25	0,25
	ب/ م - معادلة التفاعل :		
	$C_nH_{2n+1}-COOH + Na^+ + OH^- \longrightarrow C_nH_{2n+1}COO^- + Na^+ + H_2O$ ---	0,50	0,50
	ب - عدد مولات الصود = عدد مولات الحمض المستعمل = ح × ت = 3.10^{-3} مول	0,25	0,25
	$M = \frac{m}{n} = \frac{0,246}{3.10^{-3}} = 82$ غ/مول.		
	$82 = 68 + n14 \Leftarrow n = 1$ ----------	0,25	0,25
	صيغة الحمض (ج) : CH_3-COOH حمض الإيثانويك ----	0,25	0,25
	ج - الصيغة المجملة للكحول (ب) : C_3H_8O ----------	0,25	0,25
	الصيغ نصف المفصلة الممكنة للكحول :		
	$C_2H_5-CH_2OH$ بروبانول-1- ---	0,25	0,25
	$CH_3-CHOH-CH_3$ بروبانول-2- ----	0,25	0,25
	3/ عدد مولات الإستر المتشكلة عند التوازن :		
	$n = \frac{m}{M} = \frac{18,24}{102} = 0,18$ مول ----------	0,25	0,25
	مردود التفاعل = $\frac{0,18}{0,2} = 0,90 = \%90$ ----------	0,25	0,25
	∴ الكحول المستعمل كحول ثانوي $CH_3-CHOH-CH_3$ بروبانول-2	0,25	0,25
	د - الصيغة النصف المفصلة للإستر (P) : $CH_3-C(=O)-O-CH(CH_3)_2$ ---	0,25	0,25
	إيثانوات الميثيل-1 ايثيل .		

عناصر الإجابة	العلامة مجزأة	العلامة المجموع
ج- ثابت التوازن : $K_c = \frac{[\text{ماء}][\text{استر}]}{[\text{حمض}][\text{كحول}]} = 2,25$ ----------	0,25	0,25
التمرين الثاني : (04 نقاط)		
1/ P - احداثي نقطة التكافؤ ، باستعمال طريقة المماسات :		
$V_b = 10$ سم^3 ⇐ PH = 8 (يقبل PH بين 7,8 و 8,2)	0,25	0,25
ب - التركيز المولي للمحلول (C_a)		
$C_a \cdot V_a = C_b \cdot V_b \Leftarrow n_a = n_b \Leftarrow \frac{C_a \cdot V_a}{1} = \frac{C_b \cdot V_b}{1}$ ------ $\frac{10 \times 0,2}{20}$	0,25	0,25
$\therefore C_a = 0,1$ مول/لتر ----------	0,25	0,25
ج - صيغة الحمض المستعمل :		
$C = n_a = C_a \cdot V_a = 0,2 \times 10^{-3}$ مول وهي توجد في 20 سم^3 من المحلول	0,25	0,25
وفي 1 لتر $C = \frac{0,2 \times 10^{-3} \times 1}{20} = 0,1$ مول	0,25	0,25
الكتلة المولية للحمض : $M = \frac{m}{n} = \frac{4,6}{0,1} = 46$ غ/مول	0,25	0,25
$C_nH_{2n+1}-COOH = 14n + 32 + 14 \Leftarrow 46 \Leftarrow n = 0$		
الحمض هو : H-COOH حمض الميثانويك ----------	0,25	0,25
2/ . عند نقطة التكافؤ لدينا : PH < 7 ⇐ الحمض ضعيف ...	0,25	0,25
. معادلة انحلال الحمض في الماء :		
$H-COOH + H_2O \rightleftharpoons H-COO^- + H_3O^+$ ----------	0,25	0,25
3/ الأفراد الكيميائية المتواجدة في المحلول هي :		
$HCOOH$ ، $HCOO^-$ ، H_3O^+ ، OH^- ، H_2O ----------	0,25	0,25
من المنحنى البياني : PH = 2,4 (قبل المعايرة) ----------	0,25	0,25
$[H_3O^+] = 10^{-PH} = 10^{-2,4} = 10^{-0,6} \times 10^{-3} = 4 \times 10^{-3}$ مول/لتر ----	0,25	0,25
$[OH^-] = \frac{10^{-14}}{[H_3O^+]} = 2,5 \times 10^{-12}$ مول/لتر ----------	0,25	0,25

عناصر الإجابة	العلامة مجزأة	العلامة المجموع
• من قانون الحفاظ الشحنة : $[H_3O^+] = [OH^-] + [HCOO^-]$		
$[H_3O^+] = [HCOO^-] = 4 \times 10^{-3}$ مول/لتر	0,25	0,25
• من قانون الحفاظ المادة : ت = $[HCOO^-] + [HCOOH] \Leftarrow [HCOOH] = 9,6 \times 10^{-2}$ مول/لتر	0,25	0,25
$pH = pKa = 3,8$ (عند نصف حجم التكافؤ) ..... /4	0,25	0,25
- فيزياء -		
التمرين الأول : (05 نقاط) .		
1/ م - طبيعة تسارع الحركة في كل طور من أطوار الحركة :		
• الطور الأول : ($0 \leq ز \leq 0,5$ ثا)		
$\vec{سر}$ = ثابت $\Leftarrow$ $\vec{تع}_1 = \vec{0}$ ∴ الحركة مستقيمة منتظمة	0,25	0,25
• الطور الثاني : ($0,5$ ثا $< ز <$ $1,25$ ثا) .		
البيان خط مستقيم ، ميله سالب فيه :		
$\vec{سر} > \vec{0}$ ، $\vec{تع}_2 < \vec{0}$ $\Leftarrow$ $\vec{سر} \cdot \vec{تع}_2 < \vec{0}$	0,25	0,25
الحركة مستقيمة متباطئة بانتظام ، تسارعها	0,25	0,25
$تع_2 = \frac{\Delta سر}{\Delta ز} \Leftarrow تع_2 = -6,4$ م/ثا²	0,25	0,25
• الطور الثالث : ($1,25$ ثا $< ز <$ $2,25$ ثا)		
البيان خط مستقيم ميله سالب فيه :		
$\vec{سر} < \vec{0}$ ، $\vec{تع}_3 < \vec{0}$ $\Leftarrow$ $\vec{سر} \cdot \vec{تع}_3 > \vec{0}$	0,25	0,25
الحركة مستقيمة متسارعة بانتظام تسارعها	0,25	0,25
$تع_3 = \frac{\Delta سر}{\Delta ز} \Leftarrow تع_3 = -3,6$ م/ثا²	0,25	0,25
ب - المسافة المقطوعة (من طريق المساحة) : $\Delta س = \Delta س_1 + \Delta س_2 + \Delta س_3$ من مخطط السرعة لدينا : $\Delta س_1 = 4,8 \times 0,5 = 2,4$ م $\Delta س_2 = (\frac{1}{2} \times 4,8) \frac{1}{2} = 1,8$ م $\Delta س_3 = (1 \times 3,6) \frac{1}{2} = 1,8$ م		

عناصر الإجابة	العلامة مجزأة	العلامة المجموع
المسافة المقطوعة هي : $\Delta s = 6,0$ م	0,25	0,25
- المعلم : معلم أرضي مقابي ، الملاحظ : المسمى (أ)	0,25	0,25
2/ م - ح ق = ك تع م	0,25	0,25
• في المحور النائي حيث تع = - 9,4 م/ثا²	الرسم 0,25	0,25
- ك ج جا α - ص = ك تع	0,25	0,25
• في المحور الثالث حيث تع = - 3,2 م/ثا²		
- ك ج جتا α + ص = ك تع	0,25	0,25
ب - شدة قوة الاحتكاك : ق. $\alpha = 30° \Leftarrow$ جا α = 0,5	0,25	0,25
ق = - ك (ج جا α + تع)		
ومنه : ص = 0,28 نيوتن	0,25	0,25
جـ - شدة قوة الجر : ف . (المعلم أرضي مقابي)	الرسم 0,25	0,25
ح ق = 0 ⇐ ف - ص = 0	0,25	0,25
⇐ ف = ص = 0,28 نيوتن	0,25	0,25

التمرين الثاني : (04 نقاط)

1/ من البيان :		
أ - سعة الاهتزاز : ب = 4 سم = 4×10^{-2} م	0,25	0,25
ب - طول الموجة ط : ط = 0,2 × 4 = 0,8 م	0,25	0,25
جـ - سرعة الانتشار : سر = ط . ت = 40 م/ثا	2 × 0,25	0,50
د - اللحظة ز : $\Delta ز = \frac{\Delta س}{سر} = \frac{6 \times 0,2}{40} = 0,03$ ثا	0,25	0,25
2/ معادلة النقطة D : $ع_D(ز) = ع_م(ز - ز')$ مع $ز' = \frac{س}{سر}$	0,25	0,25
معادلة نقطة D من الحبل : $ع_D = ب$ جا$(ز + \pi - \frac{2\pi س}{ط})$	0,25	0,25
$\Leftarrow ع_D = 4 \times 10^{-2}$ جا$(100\pi ز - \frac{\pi}{2})$	0,25	0,25
∴ $\Delta ص = 1$ سم ، ربط : النقطة التي تهتز على توافق مع المنبع (م)	0,25	0,25
3/ أ - طول الموجة (ط') :		
لدينا : طول الحبل المهتز : ل = ن $\frac{ط'}{2}$ $\Leftarrow$ ط' = $\frac{2ل}{ن}$	0,25	0,25
$\Leftarrow$ ط' = 1 م	0,25	0,25

عناصر الإجابة	العلامة مجزأة	العلامة المجموع
ب- معادلة قوابل العقد :		
س = دالة $ط_2$ ⇐ س = 0 ؛ 0,25 م ؛ 0,5 م ؛ 0,75 م ؛ 1 م ؛ 1,25 م ؛ 1,5 م	2 × 0,25	0,50
معادلة البطون :		
س = (2ك + 1) $\frac{ط_2}{4}$ ومنه س = 0,25 ؛ 0,75 ؛ 1,25 ؛ 1,75	2 × 0,25	0,50
ج- قوة الشد في الحبل : سرعة $\sqrt{\frac{ق}{\mu}}$ ⇐ ق = سرعة^2 × μ = $ط_2^2$ × μ		
⇐ ق = 1,25 نيوتن	0,25	0,25
التمرين الثالث : (03,5 نقاط)		
1/ استنتاج (ص) و (ذ) :		
من المنحنى البياني : $ط_2^2$ = P = ب	2 × 0,25	0,50
من العلاقة النظرية : $ط_2^2$ = $ص^2$ + $ذ^2$ $ج^2$ π^2 4	0,25	0,25
ومنه : ب = $ص^2$ = 200 × 0,25 = 100 ⇐ ص = 10 Ω	2 × 0,25	0,50
$ذ^2$ = P = $\frac{4ط_2^2}{ج^2}$ = 10	0,25	0,25
$ذ^2$ = $\frac{10}{4\pi^2}$ ⇐ ذ = 0,5 هنري	0,25	0,25
2/ م- مخطط الدارة الكهربائية	0,25 × 3	0,75
ب- الظاهرة الفيزيائية :		
هي ظاهرة التأويل الكهرباني	0,25	0,25
ج- $ط_0$ = 0,25 × 200 = 500 فولت	0,25	0,25
د- عند التجاوب الكهربائي لدينا :		
ذ $ج_0$ = 1 ⇐ س = $\frac{1}{ذ ج_0}$	0,25	0,25
⇐ س = 0,2 مكـ.فا	0,25	0,25
ط = ص = $\frac{ط_م}{\sqrt{2}}$ = $\frac{5}{0,5}$ = 10 Ω	2 × 0,25	0,50
إلخ ... ص		