الجمهورية الجزائرية الديمقراطية الشعبية

وزارة التربية الوطنية — الديوان الوطني للامتحانات والمسابقات

امتحان بكالوريا التعليم الثانوي (دورة جوان 2006)

الشعب : آداب وعلوم انسانية، آداب وعلوم اسلامية، آداب ولغات أجنبية، تسيير واقتصاد. — المدة : 03 ساعات

اختبار في مادة التاريخ والجغرافيا

أجب عن سؤال واحد في التاريخ وواحد في الجغرافيا.

التاريخ

الموضوع الأول :

شهدت الفترة التي إمتدت ما بين أواخر الثمانينات وأوائل التسعينات مجموعة من التحولات الدولية الكبرى، كان أبرزها تفكك الاتحاد السوفياتي، وانتهاء الحرب الباردة، ويسود الإجماع على أن عام 1989 كان النقطة الفاصلة التي بدأ فيها زوال النظام العالمي ثنائي القطبية كما يجمع الباحثون في مختلف التخصصات على أن هناك عالما جديدا يتشكل أمام أنظارنا.

اعتمادا على الفقرة وبناء على ما درست.

1 – حدد أسباب تفكك المعسكر الشيوعي. (03 نقاط)

2 – اذكر أربعة أحداث ميزت سنة 1989 كان لها الأثر في سير العلاقات الدولية. (02 نقاط)

3 – أبرز المظاهر السياسية والإقتصادية للنظام الدولي الجديد. (03 نقاط)

المنهجية (مقدمة + خاتمة)(2 نقاط)

الموضوع الثاني :

« ... كان وصول **ديغول إلى الحكم** يعبر في نفس الوقت عن المأزق الذي وضعت فيه حرب الجزائر الاستعمار الفرنسي، وعن طموح الأوساط المسيرة الفرنسية إلى التخلص من التناقضات الداخلية التي تعرقل حلها للمشاكل، كانت سياسة السلطة الديغولية في الجزائر ذات هدف مزدوج، إضعاف القوات المسلحة الثورية بتقوية الحرب واستخلاص فئة بورجوازية صغيرة من خلال إصلاحات إقتصادية واجتماعية تكون قوة سياسية وسطى مهيأة لأن توجه الجناح الثوري من جبهة التحرير الوطني ... »

ميثاق الجزائر 1964

المطلوب : أنطلاقا من النص واعتمادا على ما درست.

1 – حدد طبيعة المأزق الذي وضعت فيه حرب الجزائر الاستعمار الفرنسي. (01 نقطة)

2 – أبرز سياسة ديغول المنتهجة لإضعاف القوات المسلحة الثورة. (03 نقاط)

3 – بين أهداف الاصلاحات الاقتصادية والاجتماعية التي انتهجها ديغول بالجزائر. (03 نقاط)

المنهجية (مقدمة + خاتمة) (3 نقاط)

الموضوع الثالث :

ربطت التواريخ المعلمية التالية بأحداث سياسية وعسكرية قبيل وأثناء الحرب العالمية الثانية.

29 سبتمبر 1938 — 23 أوت 1939 — 07 ديسمبر 1941 — 08 نوفمبر 1942

المطلوب :

1 – حدد طبيعة هذه الأحداث. (02 نقاط)

2 – بين ظروف كل حدث. (03 نقاط)

3 – وضح انعكاسات هذه الأحداث على العلاقات الدولية. (03 نقاط)

المنهجية (مقدمة + خاتمة) (02 نقاط)

الجغرافيا

الموضوع الأول :

إنطلق التكتل الأوربي سنة 1957 وفقا لمعاهدة روما بست دول، منتقلا من السوق الأوربية المشتركة إلى المجموعة الإقتصادية الأوربية سنة 1993 والتي تهدف إلى تحقيق حلم البيت الأوربي الموحد.

أنطلاقا من الفقرة واعتمادا على ما درست.

1 – حدد الأهداف الإقتصادية والسياسية لهذا التكتل. (03,5 نقاط)

2 – على خريطة أوربا المرفقة، حدد الدول الأعضاء حسب تاريخ انضمامها حتى سنة 1973. (2 نقاط)

3 – أبرز المشاكل التي تعاني منها المجموعة الإقتصادية الأوربية. (02,5 نقاط)

المنهجية (مقدمة + خاتمة) (2 نقاط)

الموضوع الثاني :

قال أحد ساسة الهند معقبا على أزمة السكان والغذاء في الخمسينات « ... إن الثورة الخضراء، سوف تتفوق على الانفجار الديمغرافي وتخفف من مأساة الغذاء والتشغيل ... »

المطلوب : انطلاقا من الفقرة واعتمادا على ما درست.

1 – بين السياسة السكانية المتبعة في الهند. (02 نقاط)

2 – أبرز جهود الهند لتحقيق الأمن الغذائي. (02 نقاط)

3 – قيم التجربة الزراعية الهندية. (04 نقاط)

المنهجية (مقدمة + خاتمة)(2 نقاط)

الموضوع الثالث

اليك جدول يمثل تطور الميزان التجاري في الوطن العربي، خلال الفترة الممتدة من سنة 1973–الى–2000.

السنوات	1973	1974	1994	1996	1997	2000
القيمة (مليار دولار)	10,3÷	48÷	30,1÷	28.9–	05,9÷	91,1÷

المرجع: تقرير صندوق النقد الدولي FMI (2003)

المطلوب :

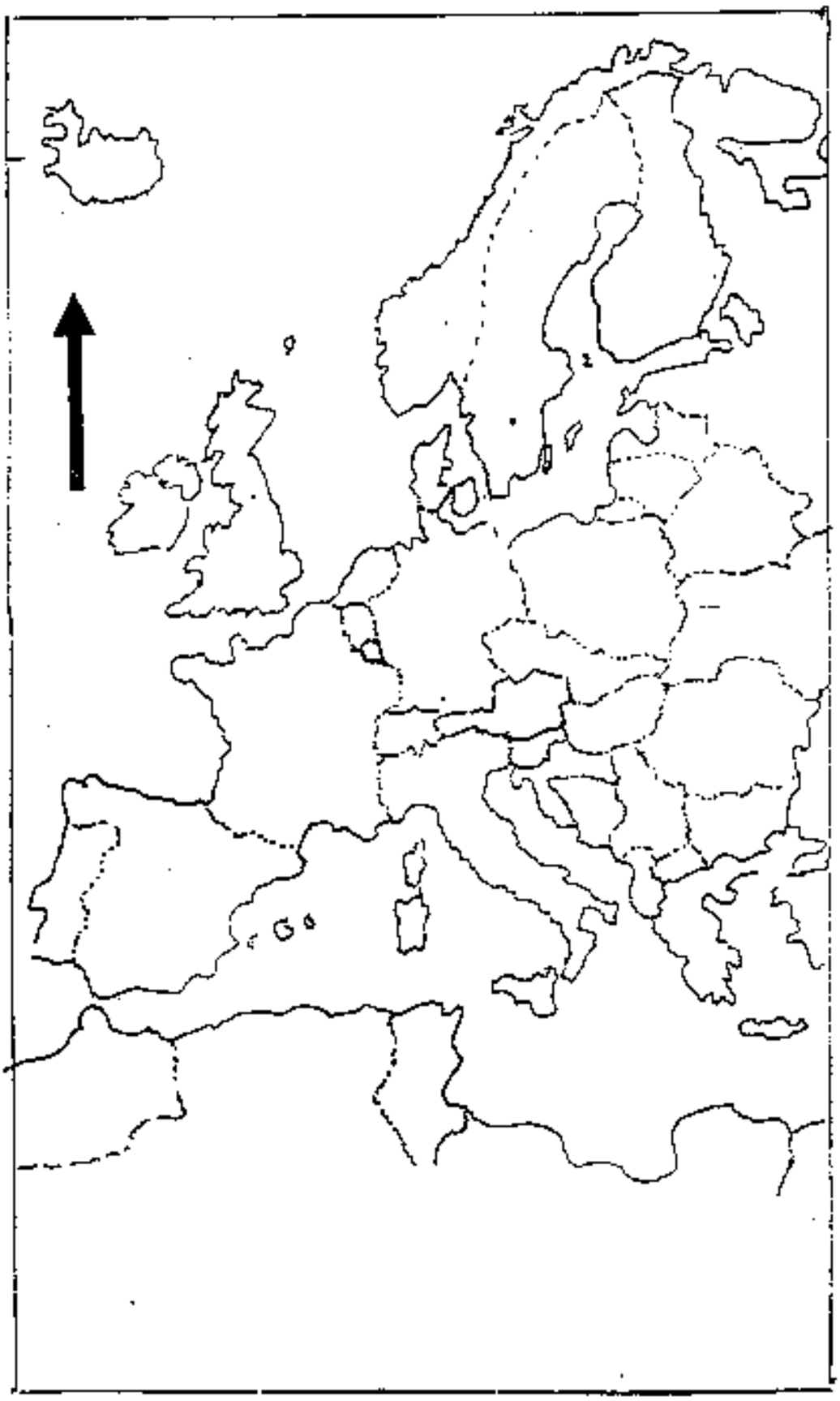
1 – مثل أرقام الجدول بمنحنى بياني بمقياس : 1 سم ⟵ 10 مليار دولار (02 نقاط)
1 سم ⟵ 4 سنوات.

2 – أدرس الرسم وعلل النتائج المتوصل إليها. (02 نقاط)

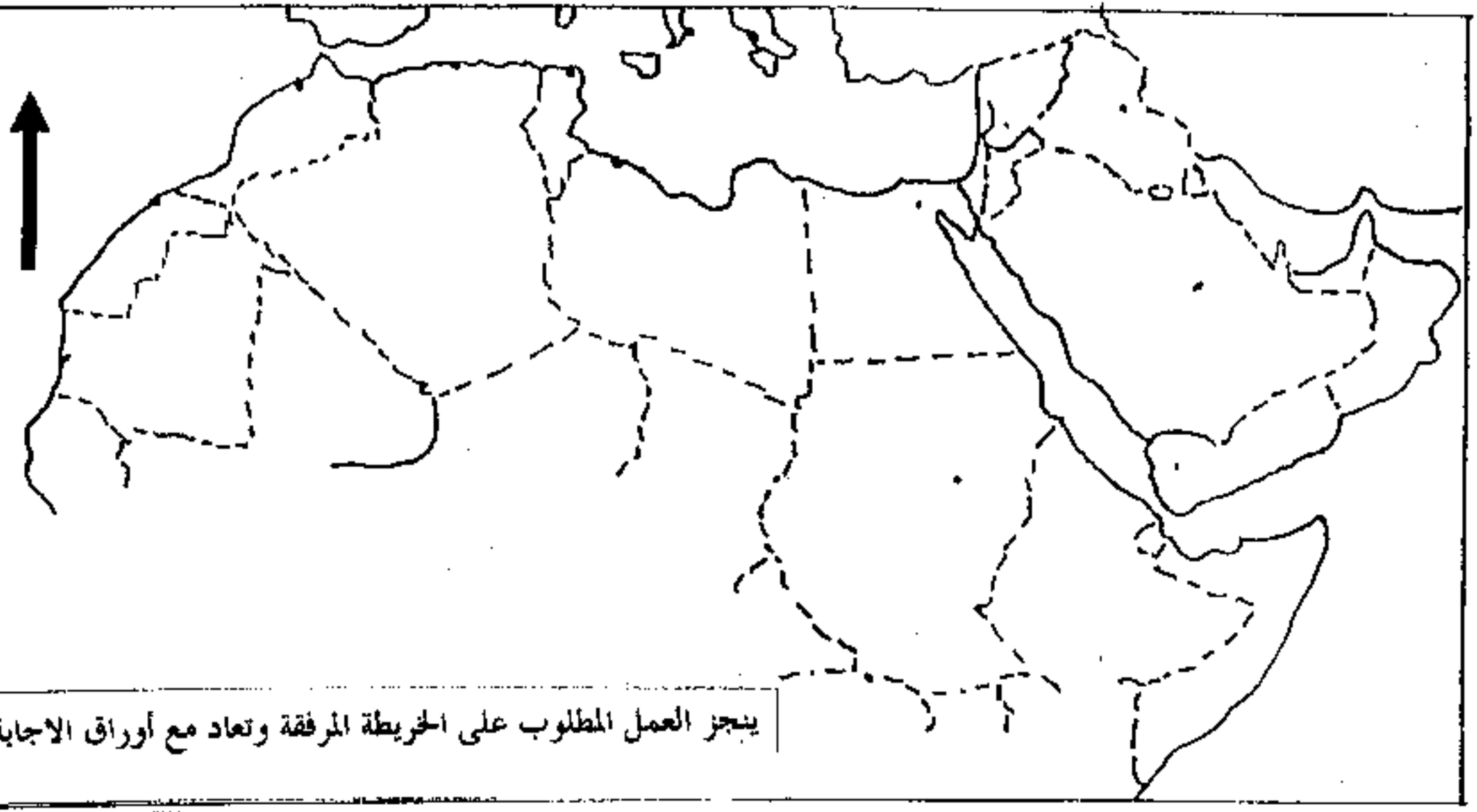
3 – أذكر أربع دول عربية تعاني عجزا في ميزانها التجاري وأربع دول تعرف فائضا في ميزانها التجاري مع التعليل . (03 نقاط)

4 – حدد على خريطة الوطن العربي المرفقة دولتين من كل مجموعة. (01 نقطة)

المنهجية (مقدمة + خاتمة) (2 نقاط)



ينجز العمل المطلوب على الخريطة المرفقة وتعاد مع أوراق الاجابة.



ينجز العمل المطلوب على الخريطة المرفقة وتعاد مع أوراق الاجابة.

محاور الموضوع	عناصر الاجابة	العلامة مجزأة	العلامة المجموع
	السؤال الأول في التاريخ		
المقدمة	اشكالية العالم من القطبية الثنائية إلى القطبية الأحادية	01	01
	1) أسباب تفكك المعسكر الشيوعي وانهياره : أ) أسباب سياسية : ــ نظام الحكم (شيوعي مركزي) ــ الأزمات السياسية داخل المعسكر الشيوعي وخارجه (الخلاف السوفياتي الصيني ــ البوخصلافي ــ التدخل في افغانستان) ــ التطورات السياسية في أوربا الشرقية منذ مطلع 80 ــ السياسة الاصلاحية لغورباتشوف . ب) أسباب اقتصادية : ــ فشل السياسات الاقتصادية وعجزها عن مسايرة التطورات. ــ ضخامة النفقات (العسكرية ــ المساعدات ــ الخدمات) ــ تبعية دول شرق أوربا المفرطة للاتحاد السوفياتي (استيراد القمح وتمويلها) جـ) أسباب اجتماعية : ــ تدهور الوضع الاجتماعي (الحريات ، غياب العدالة ، انخفاض مستوى المعيشة)	0.5 0,5 0,25 0.25 0.25 0,5 0.25 0.5	03
العرض	2 – الأحداث الأربع التي ميزت سنة 1989 ــ 15 / 2 / 89 : انسحاب الجيش من افغانستان ــ 03 و 04 / 06 / 89 : ربيع بكين ــ 09 / 11 / 89 : سقوط جدار برلين . ــ 23 / 12 / 89 : قمة مالطا (بوش ، غورباتشوف) (يذكر المترشح 04 أحداث فقط)	4×0,25	02
	3 – المظاهر السياسية والاقتصادية للنظام الدولي الجديد أ ــ المظاهر السياسية : ــ القطبية الأحادية ــ تفعيل دور الهيئات الاقليمية والدولية بما يسير مصالح (و.م.أ) ــ العولمة . ب ــ المظاهر الاقتصادية : ــ سيادة النظام الرأسمالي ــ تفعيل الهيئات المالية الدولية والاقليمية بمنظور أمريكي . ــ المنظمة العالمية للتجارة .	0,5 0,5 0,5 0,5 0,5 0,5	03
الخاتمة	توجيه الولايات المتحدة للعالم سياسيا واقتصاديا بعد انهيار المعسكر الشيوعي بما يحافظ مصالحها . تفاعل الأحداث وتطورها يؤكد الهيمنة الأمريكية المطلقة في وضع أسس النظام الدولي الجديد .	01	01

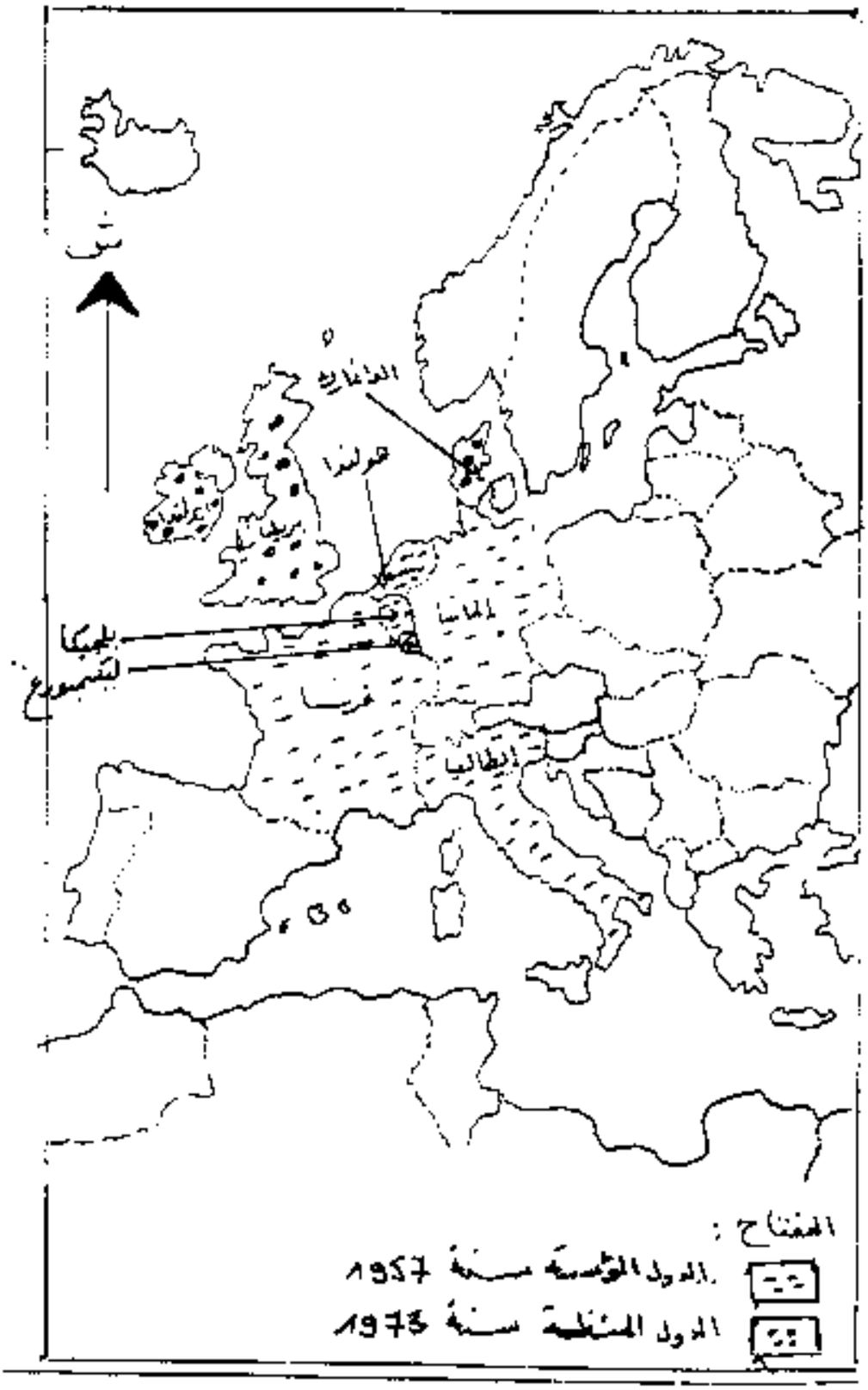
83

محاور الموضوع	عناصر الاجابة	العلامة مجزأة	العلامة المجموع
	السؤال الثاني في التاريخ		
المقدمة	صاحب النص (مصدر) : الدولة الجزائرية المستقلة ــ الاطار الزمني والمكاني : الجزائر 1964 ــ طبيعة النص : وثيقة سياسية ــ الفكرة الأساسية للنص : أهداف سياسة ديغول اتجاه الثورة .	0.5 0.25 0.25 01	02
العرض	1 – طبيعة المأزق : ــ الانقسام داخل الأوساط السياسية والعسكرية في كيفية مواجهة الثورة ــ فشل كل الخطط والاستراتيجيات الفرنسية في مواجهة الثورة .	0.5 0.5	01
	2 – سياسة ديغول لإضعاف الثورة : ــ مضاعفة عدد القوات الفرنسية ــ وضع مخططات عسكرية [شال] ــ القيام بعمليات عسكرية مكثفة [المنظار ــ الشرارة ــ الأحجار الكريمة] ــ تجنيد المزيد من الحركى. ــ استخدام الحرب النفسية والدبلوماسية	0.75 0.5 0.75 0.5 0.5	03
	3 – أهداف الاصلاحات : ــ الظهور بمظهر المصلح والمنقذ للشعب الجزائري ــ تحويل أنظار الشعب الجزائري عن قضيته الأساسية من خلال إقرار مشاريع اقتصادية واجتماعية × مشروع قسنطينة) ــ تحسين صورة فرنسا أمام الرأي العام العالمي. ــ محاولة خلق طبقة برجوازية موالية لفرنسا تشملها الإصلاحات. ــ إحداث انقسام داخل المجتمع الجزائري بين معارض ومؤيد للإصلاحات .	0.5 01 0,5 0.5 0,5	03
الخاتمة	رغم محاولات ديغول المتكررة إلا أنه فشل في إخماد واحتواء الثورة .	01	01
	السؤال الثالث في التاريخ		
المقدمة	إشكالية العالم بين منطق التحالف والمواجهة العسكرية	01	01
العرض	1 – طبيعة الأحداث : 29 / 09 / 38 مؤتمر ميونيخ 23 / 08 / 39 التحالف الجرماني السوفياتي 27 / 12 / 41 الهجوم اليباني على قاعدة بيرل هاربر 42/11/08 نزول الحلفاء بشمال افريقيا	4×0,5	02
	2 – ظروف كل حدث : أ – 29/ 38/09 : تصاعد القوة الألمانية ومطالبها بالمجال الحيوي . ــ تخاذل القوى الأخرى (فرنسا + بريطانيا) عن حماية حلفائها ب – 23 / 08 / 39 :- التوتر وسياسة التحالف ــ تحديات المانيا للحلفاء. ــ الأطماع السوفياتية بتوسيع أراضيها غربا ومخاوفه من التوسع الألماني شرقا جـ – 07 / 12 / 41 : – التفوق العسكري لألمانيا . ــ النشاط العلني المتزايد لو م أ في دعم الحلفاء. ــ التوسع اليباني في شرق آسيا والمحيط الهادي . د – 08 / 11 / 42 : ــ دخول و م أ بثقلها العسكري إلى جانب الحلفاء. ــ انهزام المحور في العلمين والمواجهة الساخنة في ستالنغراد ــ اشتداد المقاومة ضد الغزو الألماني أوربا خ.خاصة .	0.75 0,75 0,75 0.75	03
	3 – انعكاسات هذه الأحداث على العلاقات الدولية : 29 / 9 / 38 : اصرار هتلر على التوسع ــ ابعاد روسيا عن حلفائها الفرنسيين 23 / 08 / 39 : فشل كل محاولات التقارب الممكنة بين اتح ؤ الغرب (فرنسا + بريطانيا) ــ التعجيل باندلاع ح.ع 2 ــ التفرغ الألماني للجبهة الغربية 07 / 12 / 41 : تفوق خيار الحرب وتوسعها . 08 / 11 / 42 : بداية تراجع المانيا في الجبهة الجنوبية والشرقية (شمال افريقيا ، أوربا الشرقية)	2×0,25 3×0.5 0.5 0.5	03
الخاتمة	الصراع على المجالات الحيوية عجل بالحرب الثانية 2	01	01

محاور الموضوع	عناصر الاجابة	العلامة مجزأة	العلامة المجموع
	السؤال الأول في الجغرافيا		
المقدمة	المجموعة الاقتصادية الاوربية بين الواقع والآفاق	01	01
العرض	1 ــ أهداف التكتل :		03,5
	أ ــ الاقتصادية : ــ تسهيل انتقال رؤوس الأموال والأشخاص .	0,25	
	ــ تحقيق الوحدة الجمركية	0,25	
	ــ تحقيق الوحدة النقدية .	0,5	
	ــ تنسيق السياسات الزراعية بين الأعضاء .	0,25	
	ــ تحقيق سياسة تجارية موحدة لمواجهة المنافسة .	0,25	
	ــ بناء الوحدة الاقتصادية .	0,5	
	ب ــ السياسية : ــ تأمين أوربا الغربية من الخطر الشيوعي .	0,25	
	ــ تأمين أوربا الغربية من الهيمنة الأمريكية .	0,25	
	ــ استرجاع أوربا لمكانتها الدولية .	0,5	
	ــ بناء أوربا الموحدة .	0,5	
	2 ــ الخريطة : ــ الانجاز انظر صفحة : 6/4	01	02
	ــ العنوان	0,5	
	ــ المفتاح	0,5	
	3 ــ المشاكل : ــ التفاوت في النمو الاقتصادي	0,5	02,5
	ــ عدم الاكتفاء في إنتاج المواد الطاقوية والمعدنية	0,5	
	ــ المنافسة العالمية الحادة	0,25	
	ــ الفشل في تحقيق سياسة نقدية موحدة	0,5	
	ــ تباين المواقف السياسية من بعض القضايا (داخليا وخارجيا)	0,5	
	ــ عدم احترام مبدأ الأفضلية	0,25	
الخاتمة	التكتل كتجربة رائدة بين النجاح والصعوبات التي تواجهه .	01	01
	الموضوع الثاني في الجغرافيا		
المقدمة	الهند بين العدد الهائل من السكان والمتطلبات المتزايدة للغذاء وهاجس الأمن الغذائي .	01	01
العرض	1 ــ السياسة السكانية في الهند :	0,75	02
	ــ توعية السكان من أجل تنظيم النسل وتحديده .	0,75	
	ــ الحد من المواليد (تحديد سن الزواج 18 سنة للفتاة ، التنظيم الارادي)	0,5	
	ــ اصدار بعض القوانين الردعية .		
	2 ــ جهود الهند لتحقيق الأمن الغذائي :		02
	ــ الاصلاح الزراعي (1950)	0,5	
	ــ الثورة الخضراء (1965)	0,5	
	ــ التركيز على المحاصيل الزراعية ذات الاستهلاك الواسع .	0,5	
	ــ محاولة التحكم في النمو السكاني بغية تخفيض الاستهلاك .	0,5	
	3 ــ تقييم التجربة الزراعية في الهند :		04
	أ ــ رغم أن التجربة حققت نتائج هامة في تطوير الزراعة ورفع المردود واحتلال مراتب هامة على المستوى العالمي خاصة في المحاصيل الاستراتيجية (القمح ، الأرز ...)	01	
	ب ــ إلا أن توفير الغذاء في الهند يبقى معادلة صعبة أمام النمو الديمغرافي وما تعانيه الزراعة من مشاكل	01	
	جـ ــ حققت الزراعة في الهند فائضا في الميزان التجاري قدر 2,4 مليار دولار (2001/2000)	01	
	د ــ تصدير بعض المحاصيل الزراعية النقدية (الفول السوداني ــ الشاي ــ القوانله المدارية ...)	01	
الخاتمة	فشل تحقيق الأمن الغذائي لا يعني :	01	01
	ــ فشل السياسة الزراعة الهندية بقدر ما يعني فشل السياسة السكانية		

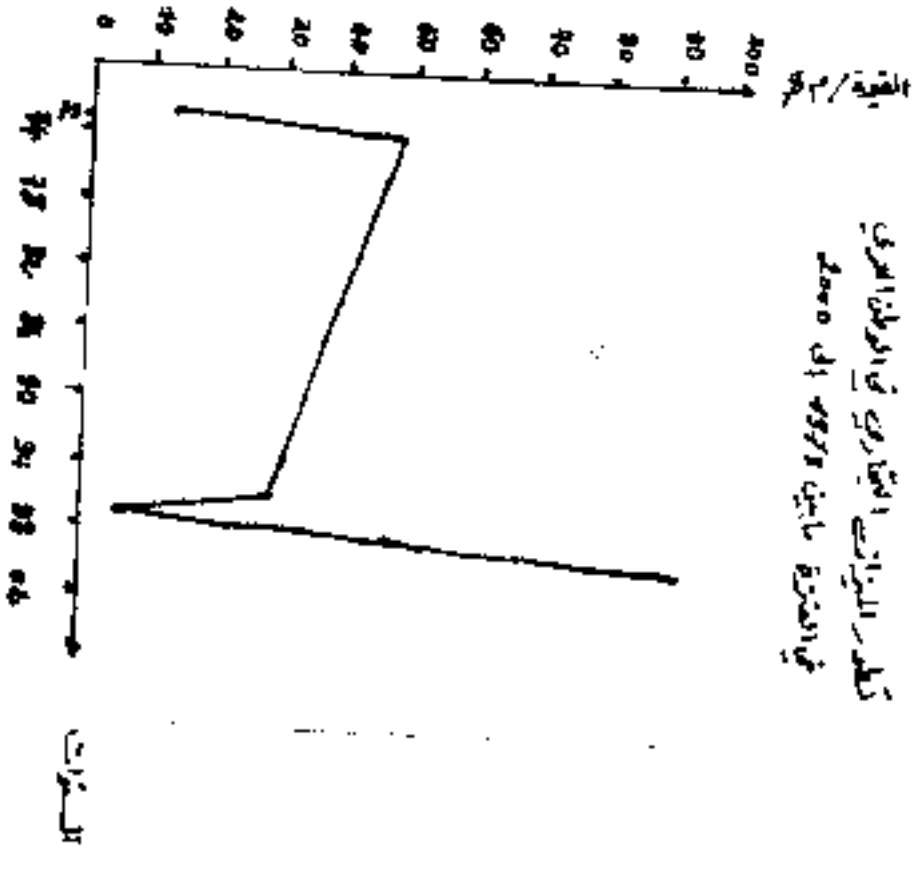
85

الدول الأعضاء في المجموعة الاقتصادية الأوربية حسب انضمامها الى عام 1973

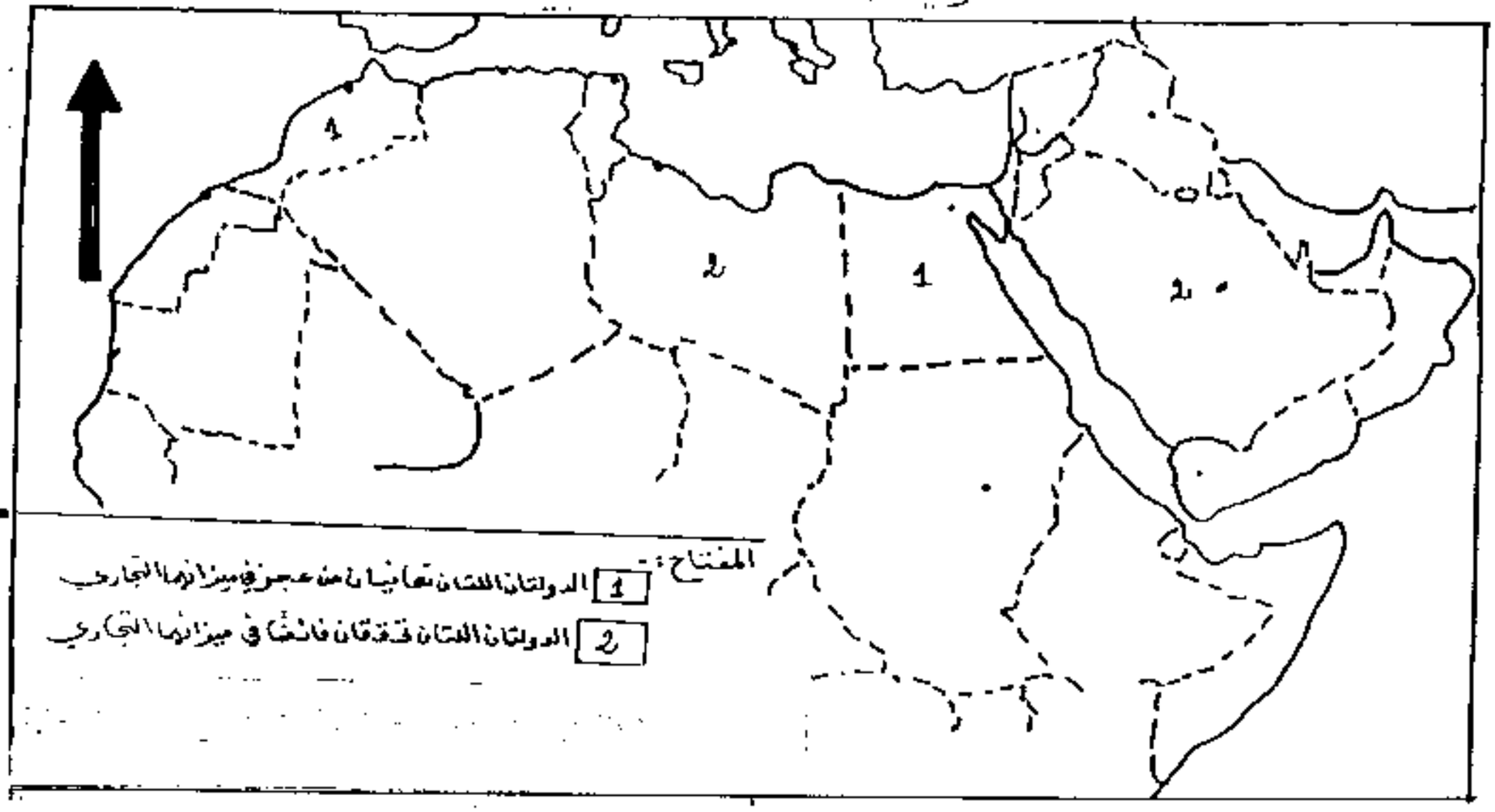


الإجابة وسلم التنقيط ــ مادة التاريخ والجغرافيا ــ شعبة الآداب الثلاثة + تسيير واقتصاد ــ بكالوريا 2006

محاور الموضوع	عناصر الاجابة	العلامة مجزأة	العلامة المجموع
	السؤال الثالث في الجغرافيا		
	وثيقة جغرافية اقتصادية توضح تطور الميزان التجاري في الوطن العربي .	01	01
المقدمة		01	
العرض	1 ــ الرسم : ــ الانجاز	0,25	02
	ــ العنوان	0.5	
	ــ المقياس	0,25	
	ــ المفتاح	0,25	
	2 ــ دراسة الرسم : + ايجابية الميزان التجاري العربي	0,5	02
	+ ضخامة عائدات البترول والخامات	0.5	
	+ تفسير الارتفاع الكبير في المداخيل ما بين 97/2000 يعود إلى الارتفاع الكبير لسعر البترول .	0,75	
	+ ارتباط الميزان التجاري العربي بالصادرات من المواد الخام .		
	3 ــ أربع دول عربية تعاني عجزا في ميزانها التجاري : المغرب الأقصى ــ ــ مصر ــ سوريا ــ السودان	0,25×4	03
	التعليل : ــ قلة المواد الخام المصدرة	0,5	
	ــ ارتفاع عدد السكان في البعض منها مما زاد في احتياجاتها		
	ــ انخفاض أسعار المواد الأولية		
	ضعف مساهمة القطاعات الاقتصادية الأخرى .		
	ــ أربع دول لها فائض في الميزان التجاري : ــ الكويت ــ ليبيا ــ السعودية ــ البحرين	0,25×4	
	ــ التعليل : ــ ضخامة الصادرات من البترول .	0,25	
	ــ قلة عدد السكان (قلة الاحتياجات)	0,25	
	ملاحظة : يمكن ان تذكر دول أخرى غير واردة في الاجابة المعطاة .	0,25×4	01
	4 ــ التوقيع على الخريطة	01	01
الخاتمة	الميزان التجاري العربي رهين تقلبات السوق العالمية للمواد الأولية .		



خريطة الوطن العربي



٢-٥